PROCESSO SELETIVO

INSTITUTO FEDERAL
Fluminense

2018 • 1.º SEMESTRE

CURSOS TÉCNICOS INTEGRADOS AO ENSINO MÉDIO E CURSOS TÉCNICOS CONCOMITANTES

CADERNO DE PROVAS

INSTITUTO FEDERAL
Fluminense
Pró-reitoria de Ensino

MINISTÉRIO DA
EDUCAÇÃO

BRASIL
GOVERNO FEDERAL

INSTRUÇÕES

Caro(a) Candidato(a),

Ao receber do fiscal o cartão de respostas personalizado e um caderno de questões, observe as seguintes orientações:

1. O caderno das questões está numerado sequencialmente e contém 40 questões para serem respondidas. Caso haja alguma falha nesse caderno, comunique-se imediatamente com o fiscal que lhe dará outro.

2. A distribuição das questões ocorre da seguinte maneira:

Língua Portuguesa	10 questões
Matemática	10 questões
Ciências Naturais	10 questões
História	05 questões
Geografia	05 questões

3. Para marcar as respostas no cartão, de forma correta, deve-se cobrir, completa e fortemente, com caneta ***PRETA***, o espaço referente à letra a ser assinalada, conforme o exemplo abaixo:

FORMA CORRETA: (A) ● (C) (D) (E)

A leitora ótica não registrará respostas com marcação pouco nítida ou com mais de uma alternativa marcada. NÃO RASURE.

4. O tempo disponível para esta prova, incluindo o preenchimento do cartão de respostas, é de 3 horas.
5. Reserve os 20 minutos finais para preencher o cartão de respostas.
6. Caso deseje levar seu caderno de questões, só poderá fazê-lo após terem transcorridas as duas primeiras horas de prova.
7. Os cadernos de questões estarão à disposição dos candidatos, na portaria dos *campi* participantes deste processo, a partir das 15 horas do dia 04/12/2017.
8. O gabarito será disponibilizado no endereço eletrônico <selecoes.iff.edu.br>, no dia 03/12/2017, após às 18 horas.
9. O resultado final estará disponível a partir do dia 10 de janeiro de 2018, no endereço eletrônico<selecoes.iff.edu.br>

A linguagem é mágica. Uma história que nos encanta ou uma imagem que nos representa; uma reflexão que nos empodera ou um som que nos fascina; uma realidade do outro que nos faz viver seu mundo, muitas vezes tão nosso... Ler é viajar, sonhar, crescer. Na comunicação, as palavras se entrelaçam no tempo e no espaço geográfico e social.

TEXTO 1

Cacarecos da língua

Gregorio Duvivier

Todo dia uma palavra morre e a gente não se dá conta. Ao contrário das pessoas, que por vezes morrem de desastre, as palavras só morrem aos poucos, devagarinho, cada dia um pouco – à medida que as pessoas que as usavam vão morrendo também. Minha avó, por exemplo. Tenho certeza de que levou junto com ela a palavra "lorota".

Há uma multidão de palavras pelas quais nada mais se pode fazer: já habitam o subterrâneo das palavras findas. O coração parou, o cérebro também, o médico declarou o óbito e o padre fez a extrema-unção. Provecto. Linfa. Ergástulo. Patego. Algumas, claro, são natimortas: Lorpa. Trenguice. Lordaço. Não adianta bisturi ou eletrochoque – nada no mundo vai resgatá-las.

Algumas, para não morrer, reinventaram-se. Trocaram de sexo, de nome e de profissão. A palavra "zoeira" já significou barulho: hoje significa troça. Não é o caso da palavra "troça", tadinha, que tá nas últimas –apesar de tão gozada.

[...]

Há palavras, no entanto, pelas quais ainda vale lutar. A palavra "cacareco", por exemplo, tá na UTI. Pros jovens que não chegaram a conhecê-la, cacareco é uma coisa velha, já sem utilidade. Sim, a própria palavra cacareco virou um cacareco.

Está longe de ser o único cacareco da linguagem. Pense quando foi a última vez que ouviu que a situação está um despautério, que fulano tá borocoxô, que tal roupa é uma coqueluche, que fulana é uma songamonga.

[...]

Paramos de falar alpendre porque as casas deixaram de ter alpendre ou as casas pararam de ter alpendre *porque já ninguém sabia o que era um alpendre?*

<http://www1.folha.uol.com.br/colunas/gregorioduvivier/2016/07/1790346-cacarecos-da-lingua.shtml?cmpid=newsfolha>
Acesso em: 21 set 2017.

QUESTÃO 1

Gregório Duvivier, ator, escritor e um dos criadores do portal de humor Porta dos Fundos, fala sobre o dinamismo da língua, confirma o óbvio: **toda língua muda com o tempo**. Cita algumas palavras que foram usadas por gerações anteriores, cita outras que ganharam vida nova ou que ganharam novos significados ao longo do tempo.
Releia o texto com atenção e assinale a opção que apresenta palavras que já nasceram mortas, que não tiveram vida útil na língua, segundo o autor.

a) Provecto, linfa, ergástulo, patego.

b) Lorpa, trenguice, lordaço.

c) Lorota, natimortas, zoeira, troça.

d) Cacareco, despautério, borocoxô.

e) Coqueluche, songamoga, alpendre.

> *Está longe de ser o único* cacareco da linguagem. Pense quando foi a última vez que ouviu que a situação está um despautério*, que fulano tá* borocoxô*, que tal roupa é uma* coqueluche*, que fulana é uma* songamonga*.*

QUESTÃO 2
Algumas palavras podem mudar sua classificação e seu significado. Dependendo do contexto em que se encontre, *manga*, por exemplo, pode significar *fruta* ou *parte do vestuário*. Por outro lado, pelo contexto, também podemos identificar o significado de palavras desconhecidas.
Releia o fragmento do texto acima e assinale a opção que apresenta um significado equivocado para a palavra analisada no contexto em que se encontra.

a) **Cacareco** - *sm.* 1. Objeto velho e/ou bastante usado; tareco. **2**. *p.ext.* Objeto sem valor.

b) **Despautério** – *sm*. Dito ou ação absurda, grande tolice; despropósito, disparate, desconchavo.

c) **Borocoxô** – *adj2g. s2g.* (*Informal*) **1**. Que ou quem está envelhecido e/ou alquebrado. **2**. Que ou o que é ou está desanimado; aborrecido.

d) **Coqueluche** - *sf.* **1**. *Infect.* Doença infectocontagiosa provocada pelo bacilo *Bordetella pertussis* (tb. conhecido como Bordet-Gengou), caracterizada por fortes ataques de tosse espasmódica.

e) **Songamonga** - *s2g.* (*Informal*) **1**. Pessoa de raciocínio lento. **2**. Pessoa de movimentos lentos.**3**. Pessoa acomodada.

QUESTÃO 3
A concordância funciona como um dos mecanismos de coesão textual. As opções a seguir identificam corretamente os sujeitos e justificam a concordância verbal em cada frase, **EXCETO** em uma. Assinale-a.

a) "a gente não se dá conta" (linha 1) – Verbo dar-se - sujeito: a gente.

b) "Há uma multidão de palavras" (linha 5) – Verbo haver – núcleo do sujeito: multidão.

c) "nada no mundo vai resgatá-las." (linhas 8-9) – Verbo resgatar – sujeito: nada.

d) "Algumas, para não morrer, reinventaram-se." (linha 10) – Verbo reinventar – sujeito: Algumas.

e) "Paramos de falar alpendre" (linha 20) – Verbo parar – sujeito implícito na desinência verbal de 1 pessoa do plural.

TEXTO 2

Cara Carolina: sextilhas e imagens
Texto: Paulo Roxo Barja
Imagens: Claudia Regina Lemes

Introdução:
Carolina Maria de Jesus era "gente humilde": passou boa parte da vida na favela, onde foi descoberta como escritora por Audálio Dantas. Ganhou fama repentina em 1960, com o lançamento do livro *Quarto de Despejo*, sucesso no Brasil e em outros países. Seguiram-se vários outros livros e até um disco de sambas autorais; no entanto, Carolina morreu empobrecida e isolada. Embora sua obra esteja inscrita na história da literatura brasileira do século XX, seus textos só podem ser apreciados em sua plenitude a partir do conhecimento das circunstâncias que nortearam a sua produção. Assim, desejamos que este trabalho desperte um olhar renovado para a vida e a obra de Carolina. Ela merece, e o Brasil precisa disso.

A MULHER QUE LÊ

Começou os seus estudos
quando tinha 7 anos;
aprendeu depressa a ler
e a escrever sem enganos,
mas ficou pouco na escola:
a vida tinha outros planos...

[...]

AS CORES

Carolina sente as cores
ali mesmo, na favela,
porém as cores reais
que em seu diário revela
são bem outras: "Quando acordo,
a fome é que é amarela."



DESPEJO

"Não é por prazer que escrevo.
Eu falo sobre o que vejo:
a favela, sei bem disso,
é só um quarto de despejo
onde a sociedade joga
quem não desperta desejo.

Registro os sonhos e a vida,
caneta em punho e papel.
Meninos dormem na rua,
garotas são de aluguel,
eu trabalho o dia inteiro
e a igreja fala de Céu

Deixo o leito para escrever.
Logo imagino um castelo
de brilhantes, prata e ouro,
sob o sol bem amarelo.
A vida é sempre tão dura...
O sonho é sempre tão belo!"
[...]

WUNDER, Alik; NOVAES, Marcus; MARQUES, Davina (org.). *Nas dobras do (im)possível: ensaios literários e imagéticos.* Campinas, SP: Edições Leitura Crítica; ALB, 2017. P. 53-63

Com a intenção de valorizar a obra de Carolina Maria de Jesus, Paulo Roxo Barja (texto) e Claudia Regina Lemes (imagens) apresentaram no 20º Congresso de Leitura do Brasil, realizado na Unicamp, em julho de 2016, uma biografia poética da escritora. Sobre esse texto, *Cara Carolina: sextilhas e imagens*, responda às questões abaixo.

QUESTÃO 4

A metalinguagem ocorre quando se fala da própria linguagem usada na comunicação. O texto 2, em sua introdução, tem como objeto de análise a poesia da autora Carolina de Jesus. Nele, encontra-se

a) uma linguagem objetiva para retratar o cotidiano das favelas brasileiras.
b) uma linguagem poética para falar de questões sociais diversas.
c) uma linguagem denotativa para contextualizar a obra da autora.
d) uma linguagem subjetiva para valorizar a vida da autora.
e) uma linguagem conotativa para incentivar a leitura de poemas sociais.

QUESTÃO 5

Na elaboração de um enunciado, os termos vão-se ligando uns aos outros, em sequências contínuas, ora estabelecendo relações sintáticas e semânticas por meio de preposições, advérbios, conjunções ou respectivas locuções, ora retomando elementos já enunciados.

Assinale a opção em que a palavra / expressão coesiva em destaque condiz com o comentário que se segue, tendo em vista a introdução da biografia poética da escritora Carolina Maria de Jesus.

a) A locução adverbial “em 1960” marca o ano em que Carolina Maria de Jesus morreu empobrecida e isolada.

b) A locução conjuntiva “no entanto” introduz uma ideia oposta àquela anteriormente enunciada e pode ser substituída por *portanto*, sem alteração de sentido.

c) A conjunção “embora” introduz uma justificativa para a oração a ser enunciada e pode ser substituída, sem alteração semântica, por *já que*, *visto que*.

d) A conjunção “Assim” introduz uma conclusão e pode ser substituída por “Por isso” ou “Então”.

e) A preposição “para” em “um olhar renovado para a vida e a obra de Carolina” tem valor semântico de movimento, indica afastamento do ponto de origem.

QUESTÃO 6

O texto em verso dá continuidade à biografia da escritora Maria Carolina de Jesus. Sobre ele, é válido afirmar:

a) O texto apresenta musicalidade em virtude de alguns recursos expressivos sonoros utilizados: regularidade métrica, ritmo bem marcado, além de rimas perfeitas nos versos pares.

b) Duas vozes se manifestam no texto em linguagem verbal, a do articulista e a da ilustradora.

c) Nos versos "A vida é sempre tão dura.../ O sonho é sempre tão belo!", os adjetivos *dura* e *belo* caracterizam respectivamente os substantivos *vida* e *sonho* e exemplificam uma **figura de linguagem** denominada metáfora.

d) As aspas presentes no texto em prosa e o uso da 1ª pessoa assinalam um depoimento sobre a frágil saúde de Carolina: "Deixo o leito para escrever".

e) Na fala "Quando acordo, a fome é que é amarela", no poema *As cores*, o termo "amarela" tem o mesmo sentido de *fraca*.

QUESTÃO 7

No mesmo texto, Carolina de Jesus define metaforicamente a *favela* como "quarto de despejo". Analise a definição poética da autora e uma possível definição literal do termo e assinale a alternativa que traz o comentário **INADEQUADO** sobre essas definições.

- "(...) a favela, sei bem disso, / é só um quarto de despejo / onde a sociedade joga / quem não desperta desejo."
- "Favela é o conjunto de habitações populares precariamente construídas e desprovidas de infraestrutura." (https://www.significados.com.br/favela/)

a) As definições são contraditórias, visto que a ideia de quarto de despejo não pode ser associada à falta de recursos materiais dessas construções.

b) A primeira definição apresenta valor conotativo, enquanto a segunda, valor denotativo.

c) O uso do pronome relativo *onde*, na primeira definição, marca a ideia de lugar, o que justifica a presença desse termo relacional.

d) A ideia de um espaço sociocultural marginalizado, habitado por pessoas de baixo poder aquisitivo é sugerida nos dois conceitos.

e) Ambas as definições representam o termo *favela*, embora com perspectivas diferentes.

QUESTÃO 8

Os verbos estão associados a acontecimentos e estados e conferem um caráter dinâmico aos enunciados por permitirem localizar, no tempo, fatos, ações e situações. Por se tratar de uma biografia, os poemas que a compõem utilizam muitos verbos que simbolizam *ação,* fato que se observa em todas as opções abaixo, **EXCETO** em

a) "revela" (*As cores*).
b) "aprendeu" (*A mulher que lê*).
c) "acordo" (*As cores*).
d) "tinha" (*A mulher que lê*).
e) "escrevo" (*Despejo).*

TEXTO 3

<https://deposito-de-tirinhas.tumblr.com/image/119490365292>.
Acesso em: 23 set 2017.

QUESTÃO 9

A reflexão filosófica presente nos dois primeiros quadrinhos de Charlie Brown, desenhados por Charles Schulz, encontra eco no seguinte verso:

a) "Logo imagino um castelo"

b) "de brilhantes, prata e ouro,"

c) "sob o sol bem amarelo."

d) "A vida é sempre tão dura..."

e) "O sonho é sempre tão belo!"

QUESTÃO 10

Nas sociedades complexas e letradas, a realidade linguística se compõe de dois grandes polos: (1) **a variação linguística**, isto é, a língua em seu estado permanente de transformação, seja em virtude da origem geográfica do falante, seja condicionada por seu status socioeconômico ou grau de escolarização, seja ainda pela mudança que ocorre ao longo do tempo – variação histórica e (2) **a norma padrão**, produto cultural, modelo artificial de língua criado para servir de padrão para os comportamentos linguísticos considerados adequados e corretos.

BAGNO, Marcos. *Nada na língua é por acaso*. São Paulo: Parábola editorial. 2010.p. 38, 43 – Adaptado.

Dos fragmentos abaixo, todos retirados do livro *Quarto de Despejo* de Carolina Maria de Jesus, assinale aquele que ilustra a variação linguística representativa do status socioeconômico e do grau de escolaridade da autora.

a) Quando vejo meus filhos comendo arroz e feijão, o alimento que não está ao alcance do favelado, fico sorrindo atoa. Como se eu estivesse assistindo um espetáculo deslumbrante. (JESUS, 1963, p.40)

b) Lavei as roupas e o barracão. Agora vou ler e escrever. Vejo os jovens jogando bola. E eles correm pelo campo demonstrando energia. (JESUS, 1963, p.40)

c) Penso: se eles tomassem leite puro e comessem carne […] (JESUS, 1963, p.40).

d) Passei uma noite horrível. Sonhei que eu residia numa casa residível, tinha banheiro, cozinha, copa e até quarto de criada. Eu ia festejar o aniversário de minha filha Vera Eunice. Eu ia comprar-lhe umas panelinhas que há muito ela vive pedindo. Porque eu estava em condições de comprar. [...] Eu comia bife, pão com manteiga, batata frita e salada. Quando fui pegar outro bife despertei. Que realidade amarga! Eu não residia na cidade. Estava na favela. Na lama, as margens do Tietê […] (JESUS, 1963, p.31).

e) "[…] os visinhos de alvenaria olha os favelados com repugnancia. Percebo seus olhares de ódio porque eles não quer a favela aqui. Que a favela deturpou o bairro. Que tem nojo da pobresa. Esquecem eles que na morte todos ficam pobre" (JESUS, 1963, p.47).

Fragmentos do livro *Quarto de despejo* disponíveis em: < http://www.ufjf.br/revistaipotesi/files/2011/05/8-Favela-espa%C3%A7o-e-sujeito-Ipotesi-152.pdf>.
Acesso em: 24 set 2017.

QUESTÃO 11

Observe com atenção as afirmações abaixo:

I. A soma dos ângulos internos de qualquer pentágono convexo é sempre 540º.

II. A solução da equação $x^2 - 0,444... = 0$ é $x = \pm 0,222...$.

III. A razão entre o comprimento e o diâmetro de uma circunferência qualquer é sempre igual a π.

IV. O resultado da expressão $\dfrac{72 - 4^2 \cdot 5}{\sqrt{20}}$ é igual a $-\dfrac{4\sqrt{5}}{5}$.

Podemos afirmar que são verdadeiras:

a) apenas as afirmações I e II.
b) apenas as afirmações I e III.
c) apenas as afirmações II, III e IV.
d) apenas as afirmações I, III e IV.
e) apenas as afirmações II e III.

QUESTÃO 12

Os cinco amigos André, Bernardo, Carlos, Daniel e Evandro decidiram passar o final de semana jogando jogos de tabuleiro. Para cumprir o planejado, eles precisarão confeccionar cinco dados na forma de um cubo (hexaedro). Ficou combinado que cada um deles deveria levar uma planificação do cubo para montar no dia do evento. As planificações que eles trouxeram foram:

André

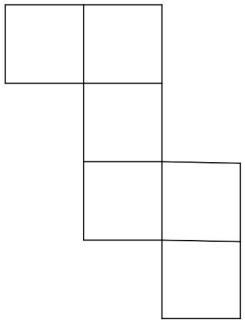

Bernardo

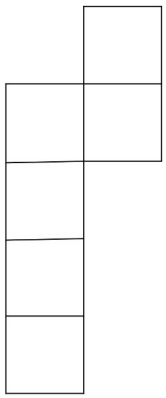

Carlos

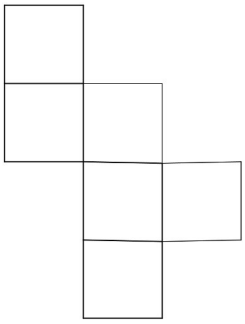

Daniel

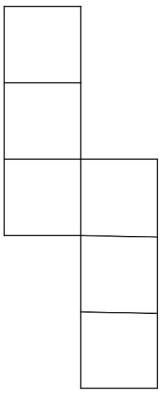

Evandro

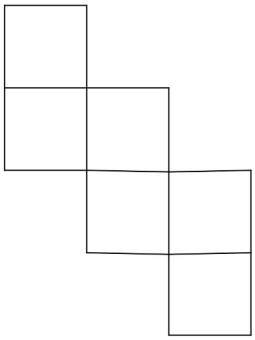

Ao montar o cubo, uma das planificações não serviu, ou seja, não era planificação do cubo. Qual dos amigos não trouxe uma planificação correta do cubo?

a) André.
b) Bernardo.
c) Carlos.
d) Daniel.
e) Evandro.

QUESTÃO 13

O senhor Adalto, responsável pela conservação da praça localizada em frente a sua casa, resolveu fazer um jardim retangular com 6m de comprimento e 2m de largura. Para proteger o jardim, ele resolveu cercá-lo utilizando uma cerca, conforme a figura abaixo:

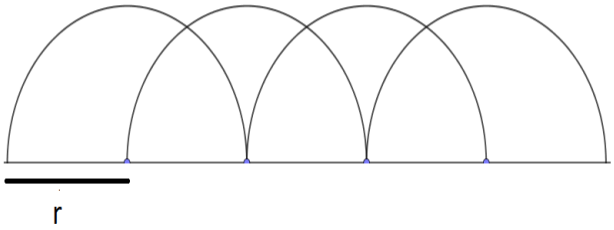

Fonte da imagem: <https://www.elo7.com.br/10-m-de-cerca-para-jardim-em-arame/dp/9EAF81#sum=0&smsm=0&df=d&fp=0&rps=0&cpr=0&ucrq=1&uss=1&sac=0&upc=0&srr=0&uso=m&sdr=0>. Acesso em: 24 set 2017.

Observando o topo da cerca, ela é formada por semicircunferências de 0,5m de raio. Qual o comprimento, em metros, de arame utilizado em todas as semicircunferências para cercar todo o jardim do senhor Adalto? (Utilize $\pi = 3{,}14$)

a) 12,56
b) 25,12
c) 50,24
d) 100,48
e) 200,96

QUESTÃO 14

Recentemente, a Polícia Federal e o Ministério Público Federal investigaram desvios de dinheiro público em contratos firmados entre empreiteiras e a Petrobras. Foi apurado que o desvio era de 4% do valor dos contratos assinados.

Suponhamos que um contrato de R$ 950.000.000,00 foi assinado entre uma das empresas investigadas e a Petrobras. Qual o valor em reais e descrito em notação científica foi desviado desse contrato?

a) $0{,}38 \times 10^8$
b) $3{,}8 \times 10^7$
c) $38{,}0 \times 10^6$
d) 380×10^5
e) $3{,}8 \times 10^8$

QUESTÃO 15

Um carpinteiro náutico produz barcos conforme a figura ao lado. A vela do barco tem o formato de um triângulo retângulo, cujo maior lado (hipotenusa) mede 25% a mais que o comprimento total da embarcação. Os demais lados (catetos) recebem valores proporcionais a 3 e 4, formando um ângulo reto entre si. Se o comprimento do barco é de 20 m, então a área, em m², da vela é:

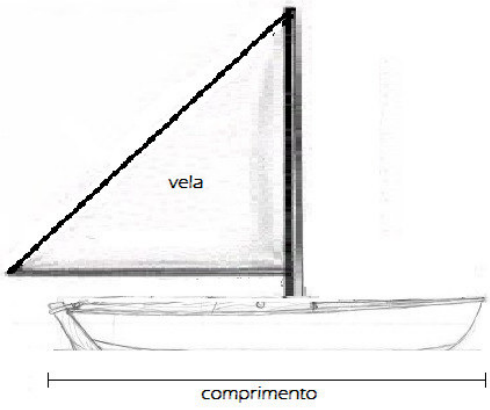

a) 80.
b) 100.
c) 120.
d) 140.
e) 150.

QUESTÃO 16

Colocando cinco moedas de R$1,00 e quatro moedas de R$0,50 centavos sobre uma balança digital, o seu visor mostra o valor de 67 gramas. Colocando sete moedas de R$1,00 e seis moedas de R$0,10, o seu visor passa a mostrar o valor de 79 gramas. A massa da moeda de R$0,50 é três gramas maior que a da moeda de R$0,10. Ao colocarmos uma moeda de cada valor (R$1,00, R$0,50 e R$0,10) sobre a balança, o resultado que aparecerá no visor, em gramas, é:

a) 20.
b) 22.
c) 24.
d) 26.
e) 28.

QUESTÃO 17

Leia o trecho da reportagem abaixo:

"O ministro da Saúde, Ricardo Barros, disse que o Brasil precisava investir fortemente em saneamento básico para que políticas de combate à disseminação de doenças possam dar certo. Durante a abertura do 1º Encontro da Rede Nacional de Especialistas em Zika e Doenças Correlatas, Barros destacou que, para cada R$ 1,00 investido em saneamento, o país economiza R$ 4,00 em saúde".

Fonte: <http://agenciabrasil.ebc.com.br/geral/noticia/2016-10/investir-em-saneamento-reduz-gasto-em-saude-diz-ministro>. Acesso em: 24 set 2017.

Se o ministro da saúde resolver economizar R$ 5,5 bilhões na saúde, ele deverá investir em saneamento básico o equivalente a:

a) R$ 1 bilhão.
b) R$ 1,25 bilhões.
c) R$ 1,355 bilhões.
d) R$ 1,375 bilhões.
e) R$ 1,5 bilhões.

QUESTÃO 18

Uma pesquisa foi realizada entre os moradores do condomínio Raiar do Sol e mostrou a evolução da avaliação do síndico Roberval ao longo de seu mandato. O gráfico abaixo mostra os resultados dessa pesquisa.

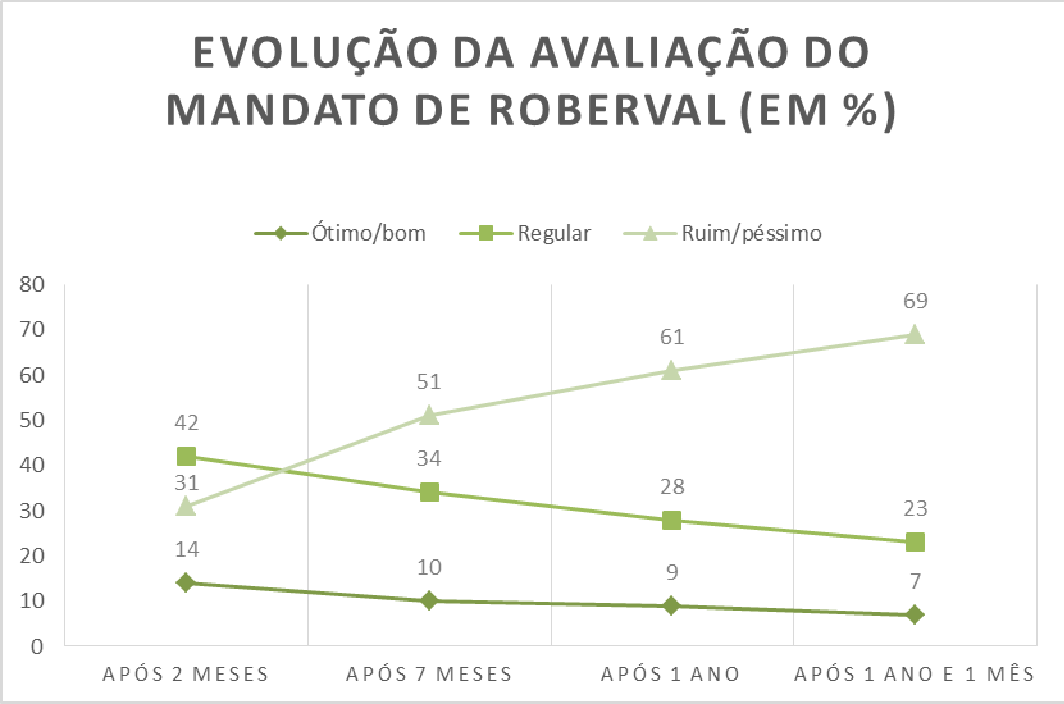

Observando esse gráfico, em qual período do mandato havia mais pessoas que não sabiam opinar?

a) Após 2 meses.
b) Após 7 meses.
c) Após 1 ano.
d) Após 1 ano e 1 mês.
e) Havia a mesma quantidade de pessoas, que não sabiam opinar, em todos os períodos.

QUESTÃO 19

A figura abaixo mostra o triângulo ABC inscrito na circunferência de centro O de raio 6 cm. O ângulo $B\hat{A}C$ mede 30°, e o segmento CD é perpendicular ao diâmetro AB. O perímetro do triângulo AOC, em cm, é:

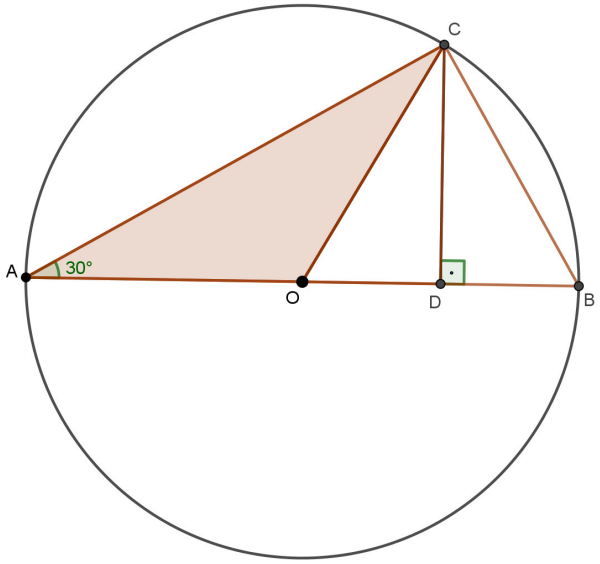

a) $12+\sqrt{3}$

b) $4\left(3+\sqrt{3}\right)$

c) $6\left(2+\sqrt{3}\right)$

d) $12\left(1+\sqrt{3}\right)$

e) $12\sqrt{3}$

QUESTÃO 20

Gilberto tem uma pequena empresa que produz camisas personalizadas. Ao realizar um estudo sobre o lucro que sua empresa lhe proporciona, ele chegou a seguinte função: $L_1(x) = -(x-3)(x-7)$, cujo x é uma variável que engloba todos os parâmetros de interesse para o lucro de sua empresa. Não satisfeito com o lucro obtido, ele estudou um pouco mais e chegou a uma nova função de lucro: $L_2(x) = -2(x-2)(x-6)$.

Para que valores de $L_2(x)$ com $L_1(x)$ possuirão o mesmo valor?

a) 2 e 3.

b) 6 e 7.

c) $(2-\sqrt{6})$ e $(2+\sqrt{6})$.

d) $(-3-\sqrt{6})$ e $(-3+\sqrt{6})$.

e) $(3-\sqrt{6})$ e $(3+\sqrt{6})$.

QUESTÃO 21

Em algumas cidades litorâneas, um problema comum na distribuição de água é a baixa pressão da água que chega às residências. Uma solução muito comum é o uso de cisternas, que são reservatórios de água que ficam abaixo do nível da residência. A água é bombeada por meio de bomba centrífuga que lança volumes de água, em velocidade elevada, no encanamento, desde a cisterna até a caixa de água que fica acima da residência. No que diz respeito à energia mecânica durante esse processo, pode-se afirmar que as formas de energia transferida à água desde a cisterna até chegar à caixa de água são, respectivamente:

a) Pluviométrica e Potencial.

b) Cinética e Potencial.

c) Cinética e Piezométrica.

d) Pluviométrica e Piezométrica.

e) Pluviométrica e Altimétrica.

QUESTÃO 22

A figura abaixo ilustra quatro diferentes tipos de movimentos. Cada diagrama (I, II III e IV) mostra as posições de um corpo em quatro intervalos de tempo iguais. Os diagramas que indicam movimentos com variação de velocidade são:

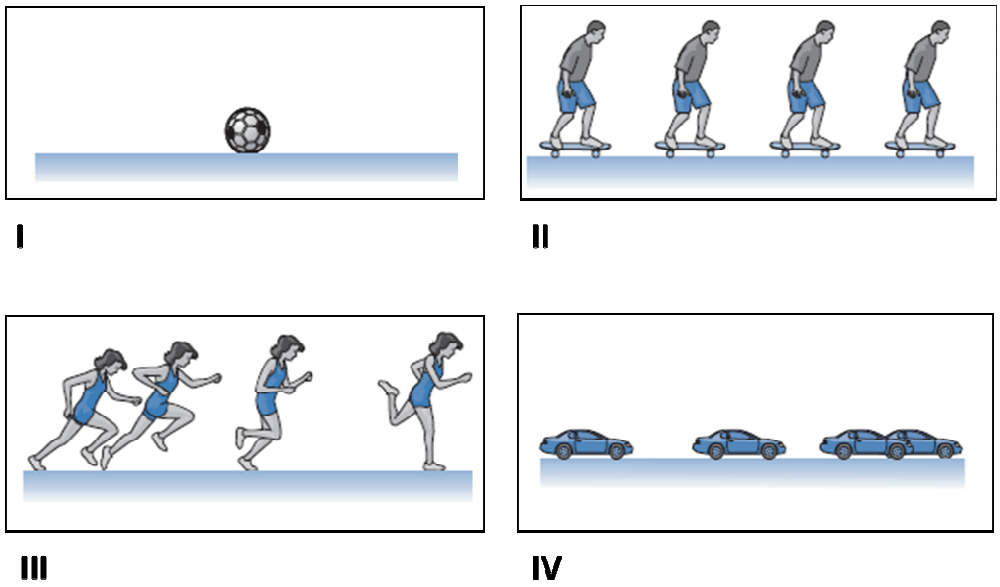

Knight, Radall. Física 1: uma abordagem estratégica. Porto Alegre: Bookman, 2009,p.4. Adaptado.

a) I e II.
b) I e III.
c) II e III.
d) III e IV.
e) I e IV.

QUESTÃO 23

Analise o fragmento, as charges e as afirmativas abaixo. Em seguida, assinale a alternativa que melhor representa as análises realizadas.

FRAGMENTO

"Os principais componentes da atmosfera são o nitrogênio diatômico (N_2) com 78%, o oxigênio diatômico (O_2) com 21%, o argônio (Ar) com 1% e o gás carbônico (CO_2) com cerca de 0,04%. Essa mistura de gases aparenta ser não-reativa na baixa atmosfera, mesmo em temperaturas e intensidade solar muito além daquelas encontradas na superfície da Terra; mas o fato é que muitas reações ambientalmente importantes ocorrem no ar, independente de estar limpo ou poluído."

Fonte: MOZETO, A. A. Química Atmosférica: A química sobre nossas cabeças.Cadernos Temáticos de Química Nova Na Escola, São Paulo, Edição Especial, p. 1-9, maio. 2001.
Disponível em:< http://qnesc.sbq.org.br/online/cadernos/01/atmosfera.pdf>.
Acesso em: 23 set 2017.

CHARGE 1

Fonte:<http://www.arionaurocartuns.com.br/2016/06/charge-menos-poluicao-do-ar.html>
Acesso em: 23 set de 2017.

CHARGE 2

Fonte:<http://andergeo2012.blogspot.com.br/2013/07/chuva-acida.html>.
Acesso em: 23 set 2017.

I. Todos os compostos apresentados no fragmento são classificados como substâncias simples.

II. Todos os componentes do ar apresentados no fragmento são considerados substâncias.

III. Na charge 1 é possível observar a presença de processos físicos durante a queima de combustíveis fósseis nas usinas. Esses processos levam a um aumento do nível de poluição atmosférica, favorecendo, assim, a formação da chuva ácida.

IV. Na charge 2, é possível observar o aumento da acidez da chuva, devido à presença dos gases O_2 e N_2 na atmosfera.

a) Todas as afirmativas são consideradas incorretas.

b) Somente a afirmativa I é considerada correta.

c) Somente a afirmativa IV é considerada correta.

d) Somente as afirmativas I e III são consideradas corretas.

e) Somente as afirmativas II e IV são consideradas corretas.

QUESTÃO 24

Analisando o fragmento, presente na questão anterior, é possível observar que o ar atmosférico é composto principalmente pelos gases oxigênio (O_2) e nitrogênio (N_2). Esses gases apresentam temperaturas de ebulição e fusão distintas e são bastante utilizados com altos teores de pureza em laboratórios de química.

Diante dessas afirmações, assinale a opção que representa o método de separação mais indicado para o ar atmosférico.

a) Decantação fracionada.
b) Destilação simples.
c) Dissolução fracionada.
d) Liquefação fracionada.
e) Filtração a vácuo.

QUESTÃO 25

Em 2017, o Tribunal Regional Federal da 4ª Região (TRF4) condenou a Petrobras e outras empresas a pagarem uma indenização de R$ 20 milhões por um derramamento de ácido sulfúrico (H_2SO_4) ocorrido em 1998. O episódio ficou conhecido como o "Caso Bahamas".

Disponível em: <https://g1.globo.com/rs/rio-grande-do-sul/noticia/trf4-condena-petrobras-e-empresas-por-derramamento-de-acido-no-mar-de-rio-grande-em-1998.ghtml>. Acesso em: 25 set 2017.

A substância citada no texto é classificada como:

a) Substância simples.
b) Substância composta.
c) Mistura homogênea.
d) Mistura heterogênea.
e) Íon.

Leia o texto a seguir para responder às questões 26 e 27.

Quando se originou a vida?

Evidências sugerem que a vida surgiu pela primeira vez por volta 3,5 bilhões de anos atrás. As evidências são formadas por microfósseis (fósseis que são muito pequenos para serem vistos sem a ajuda do microscópio) e estruturas rochosas antigas encontradas no Sul da África e Austrália chamadas estromatólitos. Estromatólitos são produzidos por micróbios (maioria cianobactérias fotossintetizantes) que formam filmes microbianos que aprisionam lama; com o tempo, camadas desses micróbios e de lama podem formar uma estrutura rochosa estratificada – o estromatólito.

Estromatólitos ainda são produzidos por micróbios hoje. Esses estromatólitos modernos são incrivelmente similares aos antigos estromatólitos que fornecem evidências de algumas das mais antigas formas de vida na Terra. Estromatólitos antigos e modernos têm formatos parecidos e, quando vistos em corte transversal, ambos mostram a mesma estrutura de camadas produzidas por bactérias. Microfósseis de cianobactérias anciãs podem, algumas vezes, serem identificadas dentro dessas camadas.

Extraído de:< http://www.ib.usp.br/evosite/evo101/IIE2aOriginoflife.shtml>.
Acesso em: 26 set 2017

QUESTÃO 26

De acordo com o texto, os estromatólitos são formados por bactérias e cianobactérias. As bactérias são muito semelhantes à primeira forma de vida que surgiu no planeta Terra. Desta maneira, selecione a alternativa abaixo que melhor descreve uma bactéria.

a) Organismo composto de uma única célula. Esta célula é eucariótica, ou seja, apresenta membrana plasmática, citoplasma, ribossomo, organelas membranosas e material genético envolto por membrana.

b) Organismo composto de muitas células. Estas células são eucarióticas, ou seja, apresentam membrana plasmática, citoplasma, ribossomo, organelas membranosas e material genético envolto por membrana.

c) Organismo composto de muitas células. Estas células são procarióticas, ou seja, apresentam membrana plasmática, citoplasma, ribossomo e apenas um DNA circular.

d) Organismo composto de uma única célula. Esta célula é procariótica, ou seja, apresenta membrana plasmática, citoplasma, ribossomo e material genético.

e) Organismo acelular, ou seja, não é composto por célula. Este organismo é composto de uma cápsula que carrega proteínas e material genético.

QUESTÃO 27

A diferença entre bactérias e cianobactérias é que as últimas são capazes de produzir seu próprio alimento utilizando a luz do Sol, gases carbônicos e nutrientes minerais dissolvidos na água. Nesse processo, denominado fotossíntese, as cianobactérias obtêm seu alimento, liberando gás oxigênio e água. Com base nessas informações, escolha a alternativa correta.

a) As cianobactérias liberam gás oxigênio ao produzirem seu próprio alimento por meio da fotossíntese, por isso são identificadas nas teias alimentares como consumidoras. No decorrer de muito tempo, alteraram a atmosfera primitiva, já que houve um acúmulo desse gás.

b) As cianobactérias liberam gás oxigênio ao produzirem seu próprio alimento por meio da fotossíntese, por isso são identificadas nas teias alimentares como produtoras. No decorrer de muito tempo, alteraram a atmosfera primitiva já que houve um acúmulo desse gás.

c) As cianobactérias liberam gás oxigênio ao produzirem seu próprio alimento por meio da fotossíntese, por isso são identificadas nas teias alimentares como consumidoras. Contudo, mesmo com o decorrer do tempo, por serem microscópicas, as cianobactérias são incapazes de alterar a composição da atmosfera.

d) As cianobactérias liberam gás oxigênio ao produzirem seu próprio alimento por meio da fotossíntese, por isso são identificadas nas teias alimentares como produtoras. Contudo, mesmo com o decorrer do tempo, por serem microscópicas, as cianobactérias são incapazes de alterar a composição da atmosfera.

e) As cianobactérias liberam gás oxigênio ao produzirem seu próprio alimento por meio da fotossíntese, por isso são identificadas nas teias alimentares como produtoras. Contudo, mesmo com o decorrer do tempo, por serem predadas por consumidores, as cianobactérias são incapazes de alterar a composição da atmosfera.

QUESTÃO 28

No dicionário encontram-se as seguintes definições para puberdade:

puberdade

substantivo feminino

1. estado ou qualidade de púbere.
2. *fisl* período de transição entre a infância e a adolescência, no qual ocorre o desenvolvimento dos caracteres sexuais secundários e a aceleração do crescimento, levando ao início das funções reprodutivas; pubescência.

Fonte:<https://www.google.com.br/search?q=Dicion%C3%A1rio#dobs=puberdade> .
Acesso em: 26 set 2017.

Escolha a alternativa abaixo que apresenta as transformações biológicas decorrentes da puberdade.

a) Por ação hormonal, são desenvolvidos os caracteres sexuais secundários, que diferenciam morfologicamente os gêneros masculino e feminino.

b) Por ação neuronal, são desenvolvidos os caracteres sexuais secundários, que diferenciam morfologicamente os gêneros masculino e feminino.

c) Por ação hormonal, são desenvolvidos os caracteres sexuais secundários, que igualam morfologicamente os gêneros masculino e feminino.

d) Por ação neuronal, são desenvolvidos os caracteres sexuais secundários, que igualam morfologicamente os gêneros masculino e feminino.

e) Por ação hormonal, são desenvolvidos os caracteres sexuais secundários, que definem os gêneros masculino e feminino.

QUESTÃO 29

A Confederação Nacional de Transporte, em 2013, identificou que 61% do transporte de cargas no Brasil utilizam o modal rodoviário. Veículos de carga, normalmente utilizam combustíveis de origem fóssil, gerando poluentes atmosféricos.
Assinale abaixo o item que cita uma alternativa mais sustentável para o transporte rodoviário.

a) A utilização de biodiesel, que é um combustível não renovável (origem fóssil) tratado por microrganismos, os quais reduzem a quantidade de poluentes.

b) A utilização de etanol, que é este uma mistura de combustível não renovável (origem fóssil) com combustível renovável (origem vegetal).

c) A utilização de biodiesel, que é um combustível renovável (origem vegetal).

d) A utilização de diesel, que é um combustível não renovável (origem fóssil).

e) A utilização de biodiesel, que é uma mistura de combustível não renovável (origem fóssil) com combustível renovável (origem vegetal).

QUESTÃO 30

Conservação de alimentos é um conjunto de métodos que evitam a deterioração dos alimentos. Os principais métodos são fervura/pasteurização, resfriamento/congelamento e desidratação. Assinale a alternativa que explica como esses métodos evitam que os alimentos estraguem.

a) Esses métodos facilitam a proliferação de microrganismos responsáveis pela conservação dos alimentos.

b) Esses métodos destroem as células dos alimentos, impedindo que eles se deteriore.

c) Esses métodos dificultam a proliferação de microrganismos responsáveis pela degradação dos alimentos.

d) Esses métodos conservam as células dos alimentos, permitindo que eles se deteriorem.

e) Esses métodos são ineficientes, pois não são úteis na conservação dos alimentos.

QUESTÃO 31

Assinale a alternativa que apresenta corretamente os deveres dos donatários em relação às capitanias hereditárias existentes durante o período colonial no Brasil:

a) desenvolver a economia e ocupar a terra.

b) organizar a defesa militar e estabelecer acordos comerciais com franceses e ingleses.

c) propagar a fé cristã e instalar indústrias de bens de consumo.

d) plantar cana-de-açúcar e preservar a cultura indígena.

e) organizar o comércio e prezar pela liberdade religiosa.

QUESTÃO 32

"A Família Real [Portuguesa] iria se acomodar bem ao Brasil e por aqui ficaria. [...] Além do mais, um série de melhorias fora introduzidas no Rio de Janeiro – como a abertura da imprensa, da Imprensa Régia, do Banco do Brasil, da circulação de moedas, das escolas de medicina, da Biblioteca Real, do Jardim Botânico, do teatro de São João –, assim como toda a pesada estrutura administrativa lusitana fora deslocada para cá, de maneira que o local agora de fato parecia a nova sede do Império."

(SCHWARCZ, Lilia Moritz. **O sol do Brasil: Nicolas-Antoine Taunay e as desventuras dos artistas franceses na corte de d. João.** São Paulo: Companhia das Letras, 2008. p. 175.) Acesso em: 21 set 2017.

Diante do texto e dos seus conhecimentos, a chegada da Família Real ao Brasil, em 1808, foi um processo que pode ser caracterizado:

a) pelo fortalecimento da aliança entre a Coroa Portuguesa e a França governada por Napoleão Bonaparte.

b) pela significativa mudança tanto política quanto econômica na estrutura da então colônia portuguesa na América, que culminou na emancipação política do Brasil.

c) pelo reconhecimento oficial por parte da Coroa Portuguesa dos ideais iluministas de igualdade, liberdade e fraternidade propagados pela elite política local.

d) pelo avanço das práticas mercantilistas de monopólio no comércio com a Europa.

e) pela diversificação da economia local, tornando o Brasil competitivo no quadro de exportações de bens manufaturados para a Europa.

QUESTÃO 33

Extraído de: <http://thecabulouso.blogspot.com.br/2013/04/ku-klux-klan_26.html.>
Acessado em: 21 set 2017

"David Duke, ex-líder da Ku Klux Klan: "Trump nos empoderou"
"Foi o esmagador voto branco que o colocou na Casa Branca, e ele deveria se lembrar disso", diz o supremacista branco em entrevista".

El País, 20 de agosto de 2017.

Assinale a opção que caracteriza a organização chamada Ku Kux Klan (KKK):

a) Fundada nos Estados Unidos, no século XIX, formada por supremacistas brancos, racistas, membros de comunidades cristãs protestantes.

b) Originou-se no Oriente Médio, no século XX, composta por radicais islâmicos.

c) Restringe-se ao continente europeu, formada por racistas alemães contrários à entrada de imigrantes provenientes da África e do mundo islâmico.

d) Difundiu-se pelo mundo ocidental com sua formação composta por líderes socialistas em defesa da revolução proletária.

e) Composta por negros liderados por Malcom X em defesa da igualdade racial nos Estados Unidos.

QUESTÃO 34

Extraído de:< http://fuscata.com.br/curiosidades/qual-a-diferenca-entre-reino-unido-gra-bretanha-e-inglaterra/>. Acessado em: 21 set 2017.

Em votação apertada no dia 23 de junho de 2016, foi aprovada, em referendo, a saída do Reino Unido da União Europeia.

Qual a opção que identifica um momento histórico importante para o processo de formação do Reino Unido?

a) Vitória da Inglaterra na Primeira Guerra Mundial.

b) União da Escócia, País de Gales e Irlanda sob liderança inglesa na luta contra a Espanha no século XVI.

c) Período da Revolução Inglesa, no século XVII, principalmente durante o governo de Oliver Cromwell.

d) Fim da Guerra Fria e queda do muro de Berlim.

e) Expansão marítima e comercial e assinatura do Tratado de Tordesilhas.

QUESTÃO 35

"Poucos períodos na História do Brasil produziram desdobramentos tão duradouros, importantes e ambivalentes como o dos oito anos que cobrem o período conhecido como Estado Novo (1937-1945). [...] Trabalhar com esses anos é [...] estar disposto a abandonar explicações simplistas e maniqueístas, uma vez que o desafio é compreender um conjunto diversificado de políticas, muitas vezes contraditórias e ambíguas, que convivem e disputam espaço em um contexto nacional e internacional extremamente tenso, até porque assinalado pela eclosão da Segunda Guerra Mundial."

(GOMES, Angela de Castro. *Estado Novo: ambiguidades e heranças do autoritarismo no Brasil*. In. ROLLEMBERG, Denise; QUADRAT, Samantha [orgs.]. **A construção social dos regimes autoritários: Brasil e América Latina**. Rio de Janeiro: Civilização Brasileira, 2011. p. 37.)
Acesso em: 21 set 2017.

Sobre esse período, é correto afirmar:

a) O Estado Novo foi uma ditadura apoiada pelas Forças Amadas, na qual o chefe do Executivo valeu-se de amplos poderes para controlar os meios de comunicação e combater as oposições.

b) Durante todo o Estado Novo, o presidente governou sem nenhuma constituição, não conseguindo, desse modo, angariar grande apoio da população.

c) O Estado Novo foi marcado pela adoção de interventores federais nos estados, que tinham como função exercer o poder executivo e indicar, sem a votação da população, os senadores e deputados a comporem o Congresso Nacional.

d) As grandes marcas da política cultural do Estado Novo foram o culto à imagem do presidente, o nacionalismo e a defesa da política liberal.

e) A participação do Brasil na Segunda Guerra Mundial foi orientada pelo Estado Novo para a defesa das forças do Eixo, lideradas pela Alemanha Nazista.

QUESTÃO 36

Os biomas brasileiros, apesar de contarem com diversas Unidades de Conservação (UC), são constantemente ameaçados pelo avanço da urbanização, da agropecuária e do desmatamento. Baseando-se nos seus conhecimentos sobre o tema, analise o mapa a seguir e assinale a alternativa correta.

Disponível na internet em: <http://www.mapasparacolorir.com.br/mapa-brasil.php>.
Acesso em: 21 set 2017.

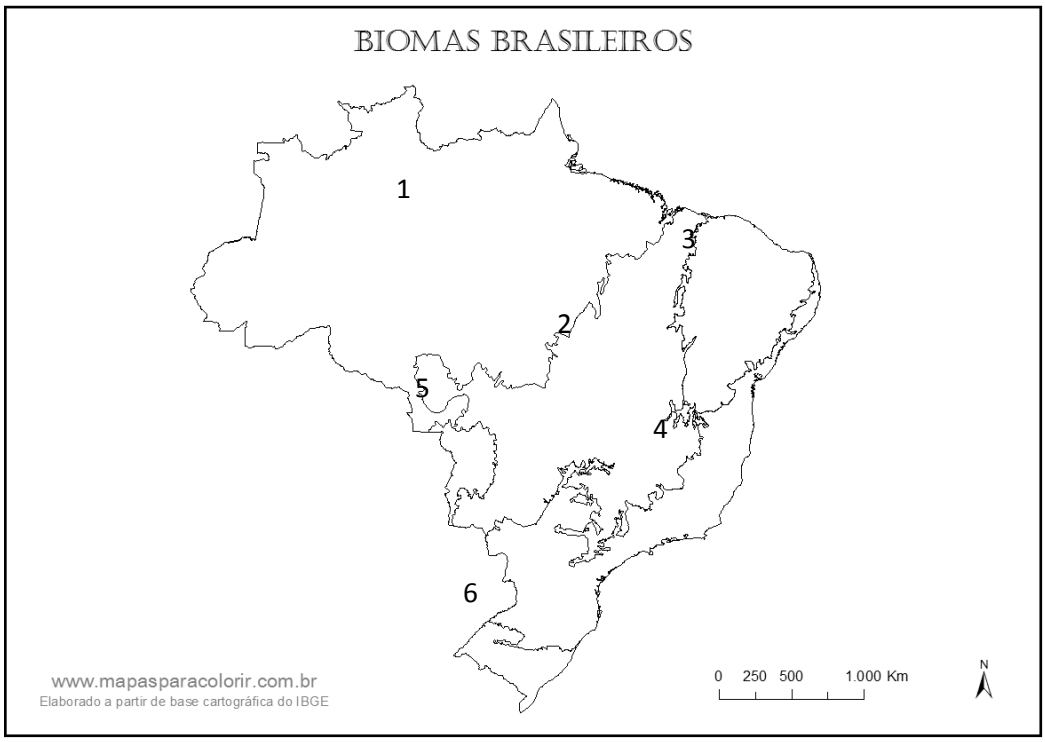

a) O bioma Mata Atlântica, área do número 4 no mapa, há séculos sofre os impactos causados pela ocupação humana, restando pouco de sua área original.

b) O bioma Cerrado localiza-se na área representada pelo número 3, sendo caracterizado por uma vegetação de raízes profundas e casca grossa.

c) A área do bioma Amazônia está representada pelo número 2, sendo muito impactada pelas atividades mineradoras e de exploração madeireira.

d) O bioma Caatinga ocupa parte da região Sul do Brasil, área do número 6 do mapa, sendo marcado pelo clima seco e solo pedregoso.

e) O bioma Pantanal ocupa a grande área representada pelo número 1 e sofre os impactos das atividades agrícolas e pecuárias, provocando erosão dos solos.

QUESTÃO 37

O relevo resulta da atuação de agentes internos e de agentes externos na crosta terrestre. Os principais agentes externos são naturais, tais como a temperatura, o vento, as chuvas e os rios. Tendo em vista a ação da água e do vento no modelado do relevo, assinale a alternativa **INCORRETA**.

a) A ação das águas ao longo do tempo causa o intemperismo químico, modificando a composição química dos minerais.

b) A ação das águas dos rios é conhecida como erosão fluvial, gerando vales mais profundos que seu entorno.

c) A erosão marinha é causada pela ação das ondas do mar desgastando os solos e rochas litorâneas.

d) A erosão pluvial decorre da ação das águas das chuvas, ocasionado desgaste no solo.

e) A erosão eólica não é capaz de esculpir as rochas.

QUESTÃO 38

Oito pessoas têm a mesma riqueza que os 50% mais pobres, diz Oxfam
15/01/2017
Oito empresários, todos eles do sexo masculino, acumulam a mesma riqueza que a metade mais pobre da população mundial, ou seja, 3,6 bilhões de pessoas (...). O ritmo no qual os mais ricos acumulam cada vez mais riqueza poderia dar lugar ao primeiro "trilionário" do mundo em apenas 25 anos. “Com essa concentração de riqueza, esta pessoa necessitaria esbanjar um milhão de dólares por dia durante 2.738 anos para gastar toda sua fortuna”, segundo a Oxfam. Frente a isso, sete em cada dez pessoas vivem em um país no qual a desigualdade aumentou nos últimos 30 anos, afirmou. Entre 1988 e 2011, a renda dos 10% mais pobres da população mundial aumentou na média só US$ 3 por ano, enquanto a do 1% mais rico cresceu 182 vezes mais, a um ritmo de US$ 11.800 por ano.

Disponível na internet em: <https://economia.uol.com.br/noticias/efe/2017/01/15/oito-pessoas-tem-mesma-riqueza-que-50-mais-pobres-denuncia-oxfam.htm>.
Acesso em: 21 set 2017.

A situação descrita evidencia

a) O amplo poder econômico dos mais pobres.
b) A redução das desigualdades sociais.
c) A grande concentração de renda.
d) A diminuição dos ganhos empresariais.
e) A manutenção dos direitos básicos da população mundial.

QUESTÃO 39

Brasília (18 de setembro) - Na terceira semana de setembro, a balança comercial brasileira registrou superávit de US$ 1,080 bilhão, resultado de exportações no valor de US$ 4,550 bilhões e importações de US$ 3,470 bilhões. No mês, as exportações chegam a US$ 9,108 bilhões e as importações, a US$ 6,654 bilhões, com saldo de US$ 2,454 bilhões. No ano, as exportações são de US$ 155,050 bilhões e as importações, US$ 104,491 bilhões, com saldo de US$ 50,560 bilhões.

Disponível na internet: <http://www.mdic.gov.br/index.php/comercio-exterior/estatisticas-de-comercio-exterior/balanca-comercial-brasileira-acumulado-do-ano>.
Acesso em: 21 set 2017.

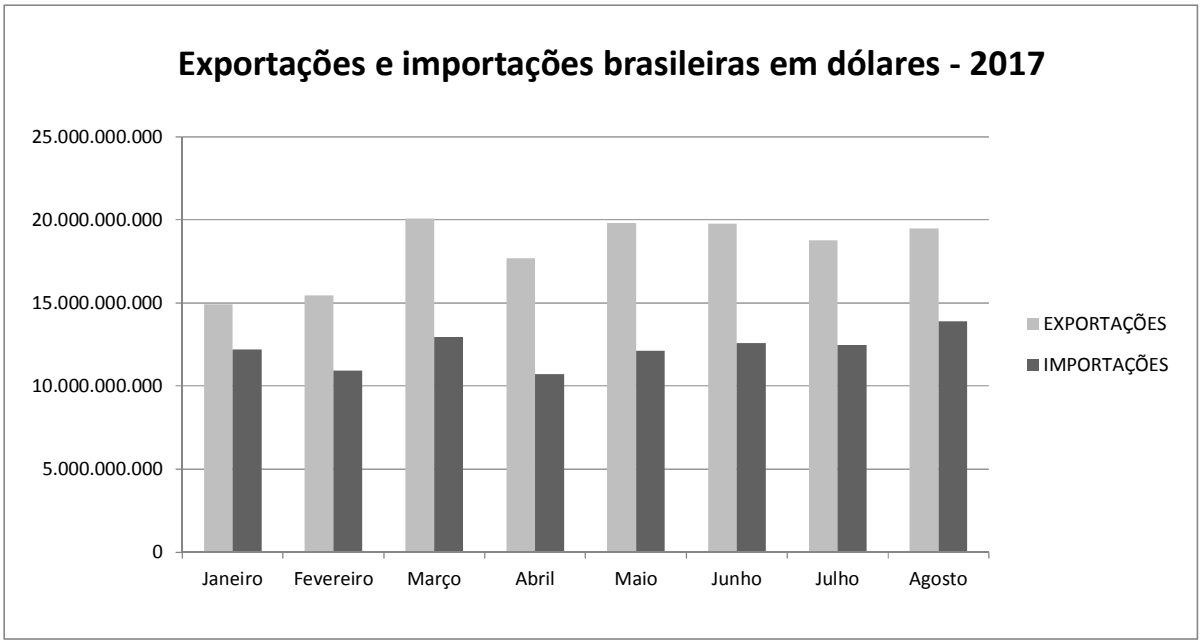

Fonte: elaboração própria

A partir do texto e da observação do gráfico, responda:

a) A maior parte das exportações brasileiras ocorreu nos meses de janeiro a março de 2017.

b) Apesar da crise econômica, a balança comercial apresenta um saldo positivo.

c) O Brasil tem um volume maior de importações do que de exportações.

d) O mês que registrou maior volume de importações foi maio.

e) Por conta da crise econômica, a balança comercial apresenta um saldo negativo.

QUESTÃO 40

No movimento de territorialização, o Instituto Federal Fluminense (IFFluminense) encontra-se em 11 municípios, com uma malha espacial que alcança 12 *campi*, um Polo de Inovação, um Centro de Referência em Tecnologia, Informação e Comunicação na Educação e a Reitoria, reunindo 14.238 estudantes, 938 professores e 742 técnico-administrativos.

Disponível na internet em: <http://portal1.iff.edu.br/conheca-o-iffluminense/apresentacao>.
Acesso em: 21 set 2017.

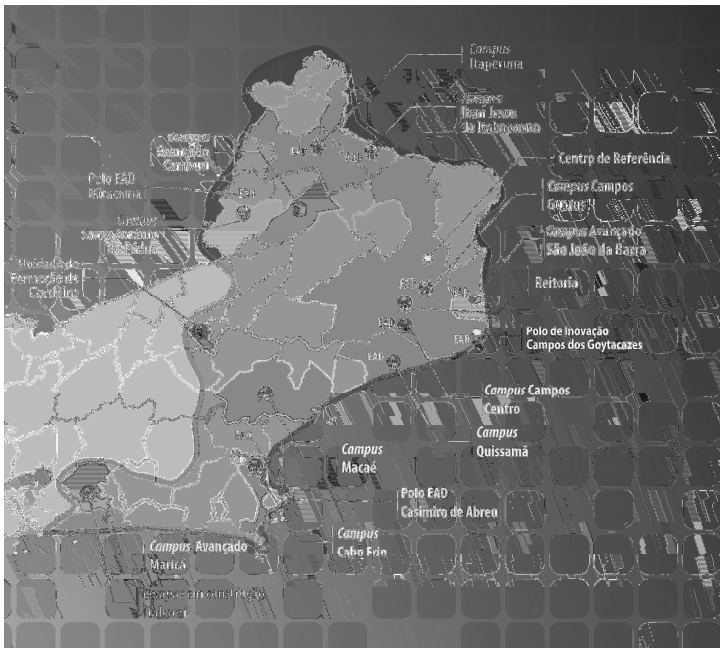

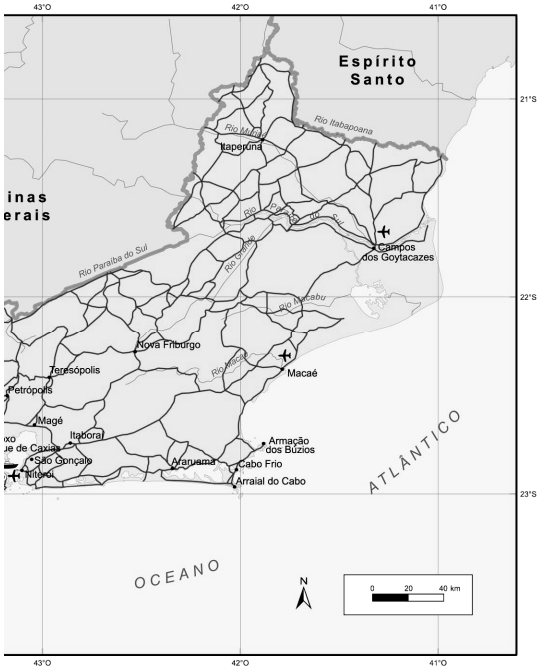

Sobre a localização dos *campi* do Instituto Federal Fluminense responda.

a) O C*ampus* Macaé é o localizado mais ao sul do estado do Rio de Janeiro.
b) O C*ampus* Itaperuna fica a leste do *Campus* Bom Jesus do Itabapoana.
c) O C*ampus* Cabo Frio está ao norte do *Campus* Quissamã.
d) O C*ampus* Itaboraí é o mais ocidental do Instituto Federal Fluminense.
e) O C*ampus* Campos Centro é o mais oriental do Instituto Federal Fluminense.

TABELA PERIÓDICA DOS ELEMENTOS

1																	18
1 H 1,008	2											13	14	15	16	17	2 He 4,003
3 Li 6,941	4 Be 9,012											5 B 10,81	6 C 12,01	7 N 14,01	8 O 16,00	9 F 19,00	10 Ne 20,18
11 Na 22,99	12 Mg 24,31	3	4	5	6	7	8	9	10	11	12	13 Aℓ 26,98	14 Si 28,08	15 P 30,97	16 S 32,06	17 Cℓ 35,45	18 Ar 39,95
19 K 39,10	20 Ca 40,08	21 Sc 44,96	22 Ti 47,87	23 V 50,94	24 Cr 52,00	25 Mn 54,94	26 Fe 55,85	27 Co 58,93	28 Ni 58,69	29 Cu 63,55	30 Zn 65,38	31 Ga 69,72	32 Ge 72,63	33 As 74,92	34 Se 78,96	35 Br 79,90	36 Kr 83,80
37 Rb 85,47	38 Sr 87,62	39 Y 88,91	40 Zr 91,22	41 Nb 92,91	42 Mo 95,96	43 Tc (98)	44 Ru 101,1	45 Rh 102,9	46 Pd 106,4	47 Ag 107,9	48 Cd 112,4	49 In 114,8	50 Sn 118,7	51 Sb 121,8	52 Te 127,6	53 I 126,9	54 Xe 131,3
55 Cs 132,9	56 Ba 137,3	57-71	72 Hf 178,5	73 Ta 180,9	74 W 183,8	75 Re 186,2	76 Os 190,2	77 Ir 192,2	78 Pt 195,1	79 Au 197,0	80 Hg 200,6	81 Tℓ 204,4	82 Pb 207,2	83 Bi 208,9	84 Po (209)	85 At (210)	86 Rn (222)
87 Fr (223)	88 Ra (226)	89-103	104 Rf (261)	105 Db (262)	106 Sg (263)	107 Bh (262)	108 Hs (265)	109 Mt (266)	110 Ds (271)	111 Rg (272)	112 Cn (285)						

Nº atômico
SÍMBOLO
Massa Atômica

Lantanídeos	57 La 138,9	58 Ce 140,1	59 Pr 140,9	60 Nd 144,2	61 Pm (145)	62 Sm 150,4	63 Eu 152	64 Gd 157,3	65 Tb 158,9	66 Dy 162,5	67 Ho 164,9	68 Er 167,3	69 Tm 168,9	70 Yb 173,1	71 Lu 175,0
Actinídeos	89 Ac (277)	90 Th 232,0	91 Pa 231,0	92 U 238,0	93 Np (237)	94 Pu (244)	95 Am (243)	96 Cm (247)	97 Bk (247)	98 Cf (251)	99 Es (252)	100 Fm (257)	101 Md (258)	102 No (259)	103 Lr (262)

INSTITUTO FEDERAL
Fluminense
Pró-reitoria de Ensino
MINISTÉRIO DA EDUCAÇÃO
BRASIL GOVERNO FEDERAL

Endereços dos Campi do IFFluminense

***Campus* Avançado Cambuci**
Santo Antão, Estrada Cambuci/ Três Irmãos, Km 5 -
Cambuci/RJ

***Campus* Avançado Maricá**
Rua das Quintanilhas, N.º 438 - Maricá/RJ
(antigo IBEC - Instituto Batista de Educação e Cultura)

***Campus* Avançado São João da Barra**
BR 356 - Km 181 - Povoado Perigoso
São João da Barra /RJ

***Campus* Bom Jesus do Itabapoana**
Avenida Dário Vieira Borges, N.º 235 – Lia Márcia -
Bom Jesus do Itabapoana/RJ

***Campus* Cabo Frio**
Estrada Cabo Frio/Búzios, s/N.º, Km 07 -
Baía Formosa - Cabo Frio/RJ

***Campus* Campos Centro**
Rua Dr. Siqueira, N.º 273 – Parque Dom Bosco -
Campos dos Goytacazes/RJ

***Campus* Campos Guarus**
Avenida Souza Mota, N.º 350 -
Parque Fundão – Campos dos Goytacazes/RJ

***Campus* Itaperuna**
BR 356, Km 3 - Cidade Nova -
Itaperuna/RJ

***Campus* Macaé**
Rodovia Amaral Peixoto, Km 164 -
Imboassica – Macaé/RJ

***Campus* Quissamã**
Avenida Amilcar Pereira da Silva, N.° 727 - Piteiras -
Quissamã/RJ

***Campus* Santo Antônio de Pádua**
Avenida João Jazbich, s/N.º – Bairro Aeroporto -
Santo Antônio de Pádua/RJ

Unidade de Formação de Cordeiro
Avenida Presidente Vargas, N.° 197 - Centro - Cordeiro/RJ
(dentro do Parque de Exposição)