PROCESSO SELETIVO 2025-1

CURSOS TÉCNICOS CONCOMITANTES e INTEGRADOS

CADERNO DE PROVAS

INSTITUTO FEDERAL
Fluminense

CONCEITO MÁXIMO INEP/MEC
5
INSTITUTO FEDERAL FLUMINENSE

INSTRUÇÕES

1. Confira se recebeu do fiscal de sala **1 caderno-proposta de questões** e **1 cartão-resposta personalizado**.

2. O **caderno-proposta** está numerado sequencialmente e contém 40 questões. Verifique se a sequência da numeração das questões, a impressão e a paginação estão corretas. Caso haja alguma falha, comunique-se imediatamente com o fiscal de sala.

3. A distribuição das questões ocorre da seguinte maneira:

CURSOS TÉCNICOS INTEGRADOS AO ENSINO MÉDIO E CURSOS TÉCNICOS CONCOMITANTES	
Área de conhecimento/Componente curricular	Número de questões
LINGUAGENS E CÓDIGOS	
Língua Portuguesa	10 (1 a 10)
CIÊNCIAS DA NATUREZA E MATEMÁTICA	
Matemática	10 (11 a 20)
Ciências Naturais	10 (21 a 30)
CIÊNCIAS HUMANAS	
História	5 (31 a 35)
Geografia	5 (36 a 40)
Total	**40**

4. Verifique, no **cartão-resposta**, se seu nome e seu número de inscrição estão corretos.

5. Para marcar as respostas no cartão, deve-se cobrir fortemente, com caneta esferográfica de tinta **preta**, o espaço referente à letra a ser assinalada, conforme o exemplo abaixo:

FORMA CORRETA: (A) ● (C) (D) (E)

6. A leitora óptica não registrará falta de nitidez na marcação nem mais de uma alternativa assinalada.
7. **O cartão-resposta não pode ser dobrado, rasurado, amassado nem manchado.**
8. A prova terá duração de três horas, incluindo o preenchimento do cartão-resposta.
9. Caso deseje levar seu caderno-proposta, só poderá fazê-lo após transcorridas duas horas do início da prova.
10. O IFFluminense divulgará, no dia **01 de dezembro de 2024**, após as 18h, o gabarito da prova, no endereço eletrônico selecoes.iff.edu.br.

Texto I

Bom para cachorro

A fama de melhores amigos do homem já ultrapassou a fronteira do convívio doméstico: os cães vêm sendo utilizados, com sucesso, como auxiliares na terapia e reabilitação de pacientes adultos e crianças. Os animais têm se revelado poderosos antídotos contra a depressão, levando alegria e promovendo a interação daqueles que precisam passar por um período de internação. É o que atestam as equipes de saúde e as organizações que promovem a Terapia Assistida por Animais (TAA).

A ciência comprova que o contato com os bichinhos ajuda a liberar os chamados "hormônios do bem", aumentando a produção de endorfina (considerada um analgésico natural) e serotonina (que atua no cérebro regulando humor, sono e apetite) e reduzindo as taxas de cortisol (relacionado ao estresse). No tratamento do câncer, que envolve quimioterapia e radioterapia, os efeitos colaterais podem ser desgastantes, e os animais ajudam a desviar o foco da doença. É o que afirma a microempresária na área de comunicação Roberta Araújo, coordenadora do Pelo Próximo, associação sem fins lucrativos, criada por ela em 2010 e que atua no Rio de Janeiro. O projeto filantrópico conta com 23 animais – 19 cachorros e quatro calopsitas – e visita de forma gratuita hospitais das redes pública e privada, além de creches e casas geriátricas, entre outras instituições.

Para requisitar os pet terapeutas, as entidades interessadas entram em contato com o projeto, a fim de conhecer seu funcionamento, conta Roberta. Então, o pessoal do Pelo Próximo faz uma palestra de apresentação à equipe da unidade interessada, e, finalmente, são propostas as datas das visitas.

Roberta lembra que sempre gostou e conviveu com animais em casa. "Eu não me conformava que eles pudessem ser somente cães de guarda ou de companhia e fui pesquisar. Descobri que, fora do País, muitas entidades já trabalhavam a terapia com intervenção de animais e resolvi aprender mais sobre o assunto." Ela fez uma capacitação em terapia e atividade assistidas por animais, em São Paulo, e também diversos cursos online sobre o tema. Logo depois, reuniu um grupo de voluntários formado por adestradores especialistas em comportamento canino, veterinários, fisioterapeutas, psicólogos, terapeutas ocupacionais e fonoaudiólogos.

E assim surgiu o Pelo Próximo, que tem o objetivo de proporcionar benefícios terapêuticos para a saúde física, emocional e mental das pessoas. "Ao longo do projeto,

aderiram também médicos de várias especialidades, enfermeiros e voluntários comuns, como donas de casa e estudantes", acrescenta Roberta.

Os voluntários – donos dos cães – que desejam participar do projeto levam seus animais para a seleção. Não há raça específica para esse trabalho. Até mesmo os sem raça definida, os chamados vira-latas, podem participar. O que é levado em conta é o temperamento do animal, que não pode ser agressivo. A seleção é rigorosa. O adestrador especialista em comportamento de cães avalia cada um, verificando como os animais se portam em situações de atendimento. Os bichinhos são colocados em teste o tempo todo. "O animal não pode, em hipótese alguma, reagir a uma agressão, um puxão de pelo ou de orelha. Isso pode acontecer, pois lidamos com pacientes bastante comprometidos, como crianças com paralisia cerebral, síndrome de Down e autistas, que podem ter atitudes não muito boas para os animais. Os tutores [donos] ficam bem atentos, mas às vezes acontece de o animal ter o pelo puxado, e não podemos correr o risco de ele reagir negativamente", explica Roberta.

Com a vivência cotidiana nesse trabalho, Roberta constata que são muitos os benefícios da TAA. "O paciente sente um grande bem-estar com a presença dos cães, porque eles remetem ao lar, e alguns doentes estão internados há bastante tempo e ficam com muita saudade de casa. Além disso, muitos pacientes têm animal de estimação. Vemos benefícios físicos, mentais, emocionais e sociais. A presença dos animais aumenta a capacidade motora, melhora o sistema imunológico, diminui os sintomas da depressão, reduz a ansiedade e baixa a pressão sanguínea. E com isso, a ingestão de medicamentos também diminui. Podemos dizer que o animal é uma grande fonte de prazer que movimenta os "hormônios do bem", observa Roberta. Os cães são facilitadores do trabalho das equipes de saúde e não estão ali para substituir os profissionais, explica Roberta. "Muito pelo contrário. Eles precisam do comando do homem para saber o que fazer. Os animais que têm muito tempo nesse serviço já sabem como agir, mas precisamos sinalizar para que eles façam o trabalho", esclarece.

Disponível em: https://www.inca.gov.br/sites/ufu.sti.inca.local/files/media/document/rrc-34-capa-bom-pra-cachorro.pdf. Acesso em: 27 de ago. 2024.

QUESTÃO 1

A finalidade do Texto I é

a) estimular a adoção de animais abandonados.
b) comercializar os serviços da empresa “Pelo Próximo”.
c) comparar diferentes terapias para a cura de doenças.
d) informar sobre um tratamento terapêutico feito com animais.
e) promover a saúde física e emocional de animais de estimação.

QUESTÃO 2

O uso do diminutivo na frase “Os bichinhos são colocados em teste o tempo todo”, Texto I, enfatiza

a) uma relação de afetividade.
b) um temperamento agressivo.
c) um tamanho desproporcional.
d) uma dificuldade de convivência.
e) uma capacidade de sobrevivência.

QUESTÃO 3

Assinale uma característica dos animais que atuam na associação “Pelo Próximo”, do Texto I:

a) São oriundos de uma raça definida.
b) Apresentam temperamento impulsivo.
c) São treinados para ministrar medicamentos.
d) Trabalham em conjunto com profissionais de saúde.
e) Agem independentemente da ordem de seus tutores.

QUESTÃO 4

Segundo o Texto I, um dos benefícios da Terapia Assistida por Animais (TAA) para os pacientes é

a) o aumento do sono e do apetite.
b) a melhora do sistema imunológico.
c) a diminuição do tempo de internação.
d) o cancelamento de cirurgias obrigatórias.
e) a interrupção dos efeitos colaterais de remédios.

QUESTÃO 5

No Texto I, o termo assinalado neste fragmento do último parágrafo "Eles precisam do comando do homem para saber o que fazer" remete a

a) "profissionais".
b) "cães".
c) "hormônios do bem".
d) "animal".
e) "medicamentos".

QUESTÃO 6

Assinale a alternativa cujo termo destacado apresenta a mesma função da palavra "que" no fragmento "Os animais que têm muito tempo nesse serviço já sabem como agir [...]".

a) "Roberta constata que são muitos os benefícios da TAA [...]".
b) "Podemos dizer que o animal é uma grande fonte de prazer [...]".
c) "Os voluntários – donos dos cães – que desejam participar do projeto [...]".
d) "Roberta lembra que sempre gostou e conviveu com animais em casa".
e) "Eu não me conformava que eles pudessem ser somente cães de guarda [...]".

Texto II

Fonte: Folha de São Paulo.
Disponível em: https://cartum.folha.uol.com.br/charges/2023/12/23/niquel-nausea-fernando-gonsales.shtml.
Acesso em: 25 ago. 2024.

QUESTÃO 7

O efeito de humor da tirinha do Texto II evidencia-se

a) na apresentação do animal como “cão de guarda”.
b) no rosnado do cão representado por um balão de fala.
c) no fato de o animal ter sido abandonado pelo seu dono.
d) na mudança de sentido da palavra “guarda” no último quadro.
e) na relação hostil entre o homem e o seu animal de estimação.

Texto III



Fonte: The News. Disponível em: https://thenews.waffle.com.br/bizness/os-pais-e-maes-de-pet-estao-dominando-o-brasil-%F0%9F%90%BE. Acesso em: 27 ago. 2024.

QUESTÃO 8

A partir da leitura do Texto III, é possível inferir que

a) o brasileiro prefere peixes a aves como *pets*.

b) os gatos são os *pets* preferidos dos brasileiros.

c) o Brasil é o país com o maior número de *pets* do mundo.

d) os cães estão em segundo lugar na preferência nacional por *pets*.
e) as aves e os cães, juntos, compõem a maior porcentagem de *pets* do Brasil.

QUESTÃO 9

O uso da frase interrogativa "O país dos pais de *pet*?" como título do Texto III teve a finalidade de

a) criticar tutores de *pets* no Brasil.
b) convencer o leitor a adotar um *pet*.
c) levar o leitor a escolher o melhor *pet*.
d) duvidar da existência de *pets* no Brasil.
e) atrair a curiosidade do leitor sobre *pets*.

QUESTÃO 10

Comparando a estrutura e a funcionalidade dos Textos II e III, temos, respectivamente os gêneros

a) fábula e panfleto.
b) tirinha e infográfico.
c) caricatura e cartum.
d) charge e cartaz de campanha.
e) história em quadrinhos e tabela.

QUESTÃO 11

Uma sala de cinema tem capacidade total de 120 expectadores. Quando os ingressos para todos os assentos dessa sala foram colocados à venda, apenas dois terços deles foram vendidos para a sessão do filme "*A volta dos que não foram".* O gerente do cinema esperava que a ocupação da sala para essa sessão fosse de pelo menos 75% da sua capacidade total. Dessa forma, é CORRETO afirmar que o número mínimo de ingressos que faltaram ser vendidos para que a expectativa do gerente do cinema se confirmasse é igual a

a) 5.
b) 10.

c) 12.
d) 24.
e) 36.

QUESTÃO 12

Texto I

Holandesa quebra recorde com arrancada histórica e vence maratona com chegada 'insana' nas Olimpíadas.

O último dia de competições em Paris começou com emoção. Após perseguir o bloco de líderes durante toda a prova, Sifan Hassan, da Holanda, tirou forças para uma arrancada histórica na reta final e venceu a maratona feminina nos Jogos Olímpicos.

Chegada de Sifan Hassan na maratona feminina

Fonte: ESPN. Disponível em: https://www.espn.com.br/olimpiadas/artigo/_/id/14026270/holandesa-quebra-recorde-com-arrancada-historica-e-vence-maratona-com-chegada-insana-nas-olimpiadas. Acesso em: 01 set. 2024. Adaptado.

A Holandesa conquistou, além do ouro na maratona, duas medalhas de prata: uma, na prova de 5.000 m; outra, na de 10.000 m. Sabendo que a Holanda conquistou um total de 34 medalhas, é CORRETO afirmar que o número de medalhas conquistadas por Sifan Hassan representa, em relação ao total de medalhas da Holanda, uma porcentagem de, aproximadamente,

a) 5,8%
b) 8,8%
c) 9,7%
d) 10%
e) 11,3%

QUESTÃO 13

Uma das unidades de capacidade que utilizamos é o litro (l). No Brasil, os refrigerantes são vendidos em litros ou mililitros (ml). Em outros países, essas bebidas podem ser vendidas utilizando-se outros múltiplos do litro, como o centilitro (cl).

Fonte: Carrefour. Disponível em: https://www.carrefour.fr/p/soda-gout-original-coca-cola-5449000243171. Acesso em: 08 set. 2024

Sendo assim, é CORRETO afirmar que a quantidade, em litros (l), do refrigerante ilustrado é igual a

a) 20,0.
b) 2,00.
c) 2,0.
d) 0,200.
e) 0,020.

QUESTÃO 14

Texto II

Aluna da Rede Municipal lança seu primeiro livro no Museu Histórico de Campos

Nesta quinta-feira (5), a aluna do 9º ano da Escola Municipal Ciep Custódio Siqueira, Eryka Pereira da Silva, 15 anos, vai lançar seu primeiro livro, “Pupila Congelada”, no Museu Histórico de Campos, no centro da cidade [...]. “Um dos projetos implantados pela Educação é o da Biblioteca em Casa, que distribui maletas com cerca de 20 livros da Literatura Brasileira, de acordo com a faixa etária dos alunos, para que eles possam levar para casa e ler com a família, ampliando o conhecimento”, finalizou a secretária.

Disponível em: https://www.folha1.com.br/cultura_e_lazer/2024/09/1301913-aluna-da-rede-municipal-lanca-seu-primeiro-livro-no-museu-historico-de-campos-nesta-quinta-feira.html. Acesso em: 05 set. 2024. Fragmento.

Considere uma situação hipotética na qual uma sala com 20 alunos receba 2 maletas (A e B) com o mesmo conteúdo: 20 livros diferentes entre si em cada uma delas. Em outras palavras, o conteúdo interno de A é igual ao de B (as obras contidas em A são as mesmas contidas em B). O primeiro aluno inicia a escolha de dois livros distintos, sendo um de cada maleta. Sabendo que as maletas A e B contêm os mesmos 20 livros, é CORRETO afirmar que o número total de possibilidades de escolha, desse aluno, sem repetição de pares de livros é

a) 39.
b) 40.
c) 160.
d) 190.
e) 200.

QUESTÃO 15

Jorge e Tadeu trabalham na mesma companhia como vendedores de vasos de flor. A empresa propõe dois tipos de contrato aos seus funcionários, que, ao ingressarem, podem escolher como serão remunerados. No primeiro tipo de contrato, o funcionário recebe um salário fixo de R$ 2.300,00 por mês somado à quantia de 10% do valor de cada vaso de flor vendido por ele ao longo do mês; no segundo tipo, o contratado recebe um salário fixo de R$ 1.700,00 por mês somado à quantia de 15% do valor de cada vaso de flor vendido por ele ao longo do mês. Jorge escolheu receber a sua remuneração de acordo com o primeiro tipo de contrato; Tadeu decidiu ser remunerado pelo segundo tipo. Sabe-se que cada vaso de flor é vendido por R$ 60,00 e que em um determinado mês, Tadeu recebeu R$ 120,00 a mais do que Jorge, ainda que os dois tenham vendido a mesma quantidade de vasos de flor. Nesse mês, é CORRETO afirmar que, Jorge e Tadeu, juntos, fizeram a empresa desembolsar, a título de remuneração, a quantia de

a) R$ 4.000,00.
b) R$ 4.800,00.
c) R$ 5.600,00.
d) R$ 6.400,00.
e) R$ 7.600,00.

QUESTÃO 16

Considere o gráfico a seguir:

Comparação entre o Brasil e as maiores economias do mundo entre 1960-2020 em relação à expectativa de vida

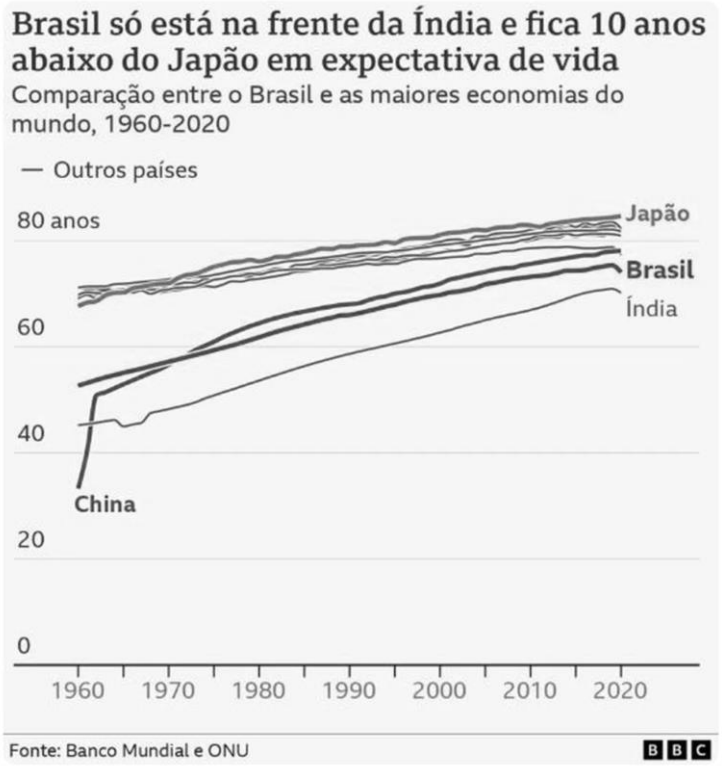

Expectativa de vida nas 10 maiores economias do mundo — Foto: BBC

Fonte: G1. Disponível em: https://g1.globo.com/saude/noticia/2023/04/22/os-graficos-que-mostram-os-paradoxos-da-expectativa-de-vida-no-brasil.ghtml. Acesso em: 01 set. 2024.

Com base no gráfico, é CORRETO afirmar que

a) o Brasil sempre esteve abaixo da China na comparação entre as expectativas de vida.
b) a expectativa de vida da Índia variou de 40 a 50 anos entre 1960 e 2020.
c) a diferença entre a expectativa de vida do Brasil e a da China é maior por volta de 1960.
d) a expectativa de vida do Japão é sempre menor do que a dos outros países.
e) a expectativa de vida da Índia é sempre menor do que a dos outros países.

QUESTÃO 17

O número de lados de um polígono regular convexo é igual a dois terços do número de diagonais desse mesmo polígono. Sabendo que $\sqrt{2} \cong 1{,}41$ e $\sqrt{3} \cong 1{,}73$, e que o lado desse polígono mede 4 cm, é CORRETO afirmar que o valor, aproximadamente,

a) do perímetro é de 32 cm.
b) da área é de 33,84 cm².
c) da área é de 41,52 cm².
d) da maior diagonal é de 5,64 cm.
e) da maior diagonal é de 6,92 cm.

QUESTÃO 18

Texto III

Elementos corporais da ginástica rítmica

Nas coreografias individual e de conjunto, as ginastas devem enfatizar os elementos corporais junto com o aparelho e a música. Os elementos corporais fundamentais se classificam por saltos, equilíbrios e elementos de rotação, porém, além destes movimentos, a ginasta pode realizar outros elementos corporais como: saltitos, balanceios, giros, passos de dança e pré-acrobáticos [...]. No quadro a seguir encontraremos alguns movimentos fundamentais realizados pelas ginastas.

Quadro de elementos corporais fundamentais

SALTOS	EQUILÍBRIOS	ELEMENTOS DE ROTAÇÃO
		
		

Fonte: Edisciplinas,usp. Disponível em: https://edisciplinas.usp.br/pluginfile.php/6561245/mod_resource/content/1/Metodologia%20do%20Ensino%20da%20GR.pdf. Acesso em: 31 ago. 2024. Adaptado.

Imagine que uma ginasta, cujas pernas medem 80 cm, realize o movimento destacado na figura a seguir.



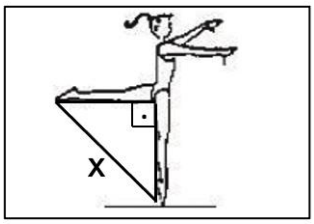

Considerando que as pernas da ginasta e a distância entre as pontas dos seus pés forma um triângulo retângulo isósceles, a medida da hipotenusa (x), destacada na última imagem, é de, aproximadamente,

a) 0,12 m.
b) 0,4 m.
c) 0,8 m.
d) 1,02 m.
e) 1,13 m.

QUESTÃO 19

Na figura, a seguir, está representado o desenho de um barquinho poligonal, cujos vértices são os pontos A, B, C, D, E, F, G, H, I e J, dispostos em uma malha quadriculada. Sabe-se que essa malha é composta por quadradinhos de 1 cm de lado.

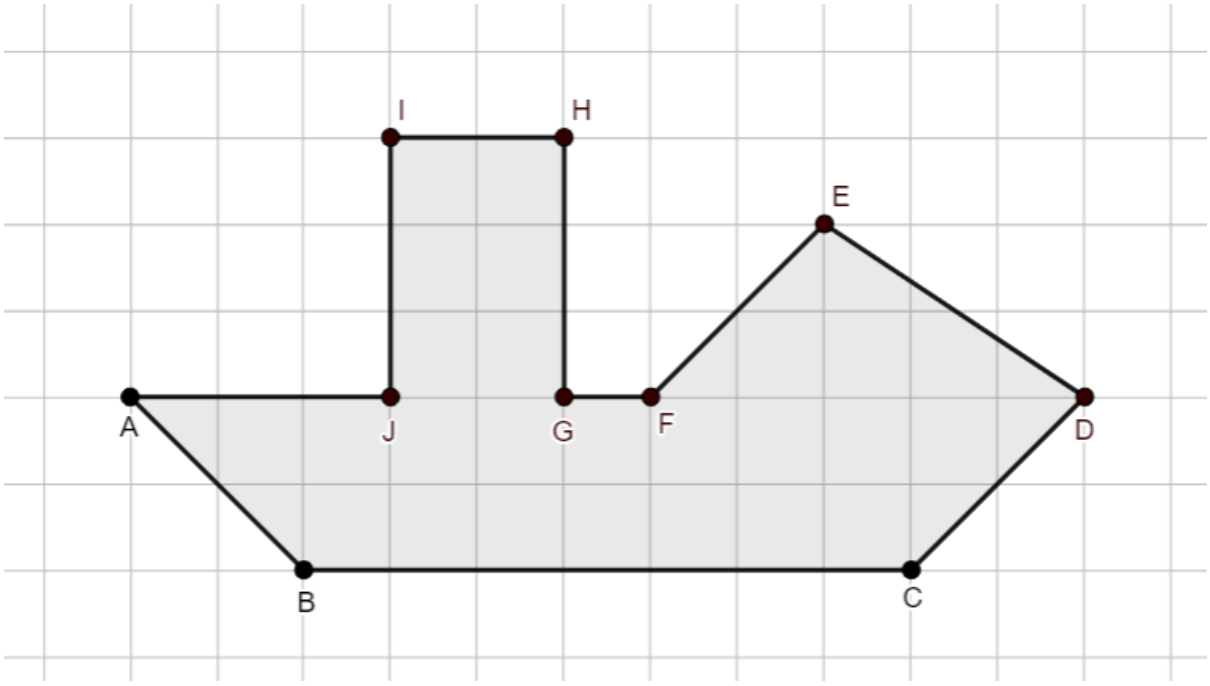

Fonte: Elaboração própria (2024).

Dessa forma, é CORRETO afirmar que

a) A área do barquinho é igual a 29 cm² e seu perímetro é maior do que 29 cm.
b) A área do barquinho é menor do que 29 cm² e seu perímetro é igual a 29 cm.
c) A área do barquinho é maior do que 29 cm² e seu perímetro é igual a 29 cm.
d) A área do barquinho é igual a 29 cm² e seu perímetro é menor do que 29 cm.
e) A área do barquinho é igual a 29 cm² e seu perímetro é igual a 29 cm.

QUESTÃO 20

Texto IV

O Brasil nos Jogos Paralímpicos

A natação é a segunda modalidade em que o Brasil mais conquistou medalhas na história dos Jogos Paralímpicos com 125 pódios, atrás apenas do atletismo. O nadador Daniel Dias

é o maior medalhista paralímpico brasileiro com 26 láureas, marca que também lhe rendeu o título de maior nadador paralímpico no masculino.

Disponível em: https://cpb.org.br/modalidades/natacao/. Acesso em: 01 set. 2024. Fragmento.

As piscinas paralímpicas são iguais às piscinas olímpicas e têm 10 raias (sendo 8 para competição), 50 metros de comprimento e 25 metros de largura, conforme mostra a figura a seguir.

Piscina oficial do Centro de Treinamento Paralímpico Brasileiro, em São Paulo

Fonte: Comitê Paralímpico Brasileiro.
Disponível em: https://cpb.org.br/noticias/delegacao-brasileira-de-natacao-paralimpica-embarca-nesta-quarta-para-disputa-de-mundial-em-portugal/. Acesso em: 01 set. 2024.

O volume aproximado de água de uma piscina de 2 metros a 3 metros de profundidade, em litros, varia de

a) 2.500.000 litros a 3.750.000 litros.
b) 3.750.000 litros a 4.000.000 litros.
c) 4.000.000 litros a 5.000.000 litros.
d) 5.000.000 litros a 6.750.000 litros.
e) 6.750.000 litros a 7.000.000 litros.

QUESTÃO 21

A inserção de novas tecnologias na cozinha doméstica já representou, ao longo das décadas, mudanças na agilidade do desenvolvimento de tarefas, representando mudanças no comportamento das pessoas e na forma de se alimentarem.

A respeito de equipamentos de utilidade doméstica e seus processos elétricos de funcionamento:

I. Um forno micro-ondas se vale de radiação eletromagnética para mudar o estado energético de moléculas de água contidas nos alimentos.
II. Uma fritadeira do tipo que usa fluxo de ar quente e sem uso de óleo, demanda eletricidade para produzir calor por meio de resistência elétrica e de ventilador elétrico de alta velocidade.
III. Em um fogão de indução, o campo eletromagnético é utilizado para induzir corrente cuja dissipação produz calor no fundo da panela.

A partir das afirmativas apresentadas, está (ão) CORRETA(S):

a) Todas estão corretas.
b) Apenas I e II estão corretas.
c) Apenas II e III estão corretas.
d) Apenas I está correta.
e) Apenas II está correta.

QUESTÃO 22

Ana mora no interior do Rio de Janeiro e está planejando uma observação astronômica noturna, no terraço de sua casa, para fotografar a Lua Cheia. Ela sabe que a fase cheia da Lua ocorre em um momento específico do ciclo lunar e verifica que, ao amanhecer, a Lua é vista no céu em formato de semicírculo, conforme a imagem a seguir.

Fonte: Instituto Nacional de Meteorologia.
Disponível em: https://portal.inmet.gov.br/paginas/luas. Acesso em: 07 out. 2024.

Dentre as opções abaixo, qual apresenta, respectivamente, a fase em que a Lua se encontra e a quantidade aproximada de dias que Ana deverá aguardar até a Lua Cheia?

a) Crescente; aproximadamente 7 dias.
b) Minguante; aproximadamente 7 dias.
c) Crescente; aproximadamente 21 dias.
d) Minguante; aproximadamente 21 dias.
e) Crescente; aproximadamente 28 dias.

Utilize o texto a seguir para responder às questões 23 e 24.

O sangue desempenha um papel crucial no transporte de gases no corpo humano, especialmente oxigênio e dióxido de carbono. Nos tecidos, o oxigênio é liberado da hemoglobina e utilizado pelas células para a respiração celular, enquanto o dióxido de carbono gerado é coletado pelo sangue para ser transportado de volta aos pulmões, onde é liberado do sangue e expelido durante a expiração, enquanto o oxigênio é absorvido.

QUESTÃO 23

O ar atmosférico é uma mistura de gases. Dentre os principais, encontram-se os gases mencionados no processo de respiração celular. Considerando que a temperatura média global da Terra é de aproximadamente 15°C, analise as afirmações a seguir:

I- O ponto de ebulição do dióxido de carbono é menor que 15°C.
II- Os gases do ar atmosférico formam uma mistura heterogênea.
III- O gás que é transportado pela hemoglobina até os tecidos é uma substância simples.
IV- O gás expelido na expiração é o NO_2.

As afirmações VERDADEIRAS são

a) I e III.
b) I e IV.
c) II e III.
d) II e IV.
e) III e IV.

QUESTÃO 24

O sangue, responsável pelo transporte dos gases na respiração, quando visto em um microscópio, apresenta fases distintas. Com base nessa informação, o método de separação que pode ser utilizado no sangue é a

a) catação.
b) evaporação.
c) centrifugação.
d) dissolução fracionada.
e) destilação fracionada.

QUESTÃO 25

Em 1906, o cientista russo Mikhail Semenovich Tswett utilizou uma coluna de vidro preenchida com carbonato de cálcio ($CaCO_3$) para separar os pigmentos de um extrato de planta. Tswett foi o primeiro a usar o termo "cromatografia", que se tornou uma das principais técnicas químicas da modernidade. Considerando a densidade do carbonato de cálcio igual a 2,7 g/cm^3, a massa do sal necessária para preencher 50 % do volume de uma coluna cromatográfica de 1,0 L é de

a) 1,35 kg.
b) 1,85 kg.
c) 2,25 kg.
d) 2,70 kg.
e) 3,00 kg.

QUESTÃO 26

No dia 26 de agosto de 2024, um terremoto de magnitude 5,4 atingiu os arredores de Lisboa, em Portugal. O tremor foi fortemente sentido na capital portuguesa e no Porto, tendo sido considerado um dos mais fortes em décadas no país, que já foi atingido por um dos piores terremotos do mundo, no século XVIII. Qual das alternativas abaixo explica CORRETAMENTE a causa dos terremotos?

a) Movimentação das marés, provocada pela gravidade lunar.
b) Oscilações na temperatura da atmosfera terrestre.
c) Movimentação das placas tectônicas na litosfera terrestre.
d) Erosão contínua da superfície terrestre pelas chuvas.
e) Erupções vulcânicas no fundo do oceano.

QUESTÃO 27

A fermentação biológica é o processo metabólico em que um composto (por exemplo, a glicose) é convertido em outro (por exemplo, o etanol) pela ação enzimática de um organismo vivo (leveduras e bactérias, por exemplo). Existem diferentes tipos de fermentação biológica, que são classificados de acordo com o produto final desse processo, a exemplo da fermentação alcóolica, cujo produto é o etanol, e da fermentação láctea, cujo produto é o ácido láctico. Esses tipos de fermentação são muito utilizados na indústria alimentícia para a obtenção de produtos, tais como queijos, iogurtes e vinhos. No entanto, para os micro-organismos que realizam esse processo, o objetivo é a produção de energia para sua sobrevivência.

Baseado no exposto, assinale a alternativa que descreve CORRETAMENTE a fermentação biológica como processo de obtenção de energia realizado por diferentes tipos de micro-organismos:

a) É um processo aeróbico no qual o oxigênio é utilizado para produzir energia em grandes quantidades.
b) É um processo anaeróbico que ocorre na presença de oxigênio, resultando na produção de água e de dióxido de carbono.
c) É um processo aeróbico em que a glicose é completamente oxidada, liberando grande quantidade de energia.
d) É um processo anaeróbico em que a glicose é parcialmente degradada, liberando energia em pequenas quantidades.
e) É um processo que utiliza luz solar como fonte de energia para a síntese de compostos orgânicos.

QUESTÃO 28

Nos mamíferos, a coordenação do metabolismo é realizada pelo sistema neuroendócrino, a base do controle dos outros sistemas, estando, portanto, estreitamente ligado aos processos metabólicos de nutrição, crescimento e reprodução. As células individuais de um determinado tecido “sentem” uma mudança nas condições do organismo e respondem com a secreção de um mensageiro químico, que passa para outra célula no mesmo tecido ou em um tecido diferente. No sistema nervoso, a comunicação opera por meio de neurotransmissores, ao passo que, no sistema endócrino, atuam mensageiros químicos denominados hormônios, os quais são transportados pelo sangue até seu local de ação (órgão-alvo). O sistema nervoso e o endócrino estão inter-relacionados, pois primeiro pode controlar a função do segundo, ao tempo que alguns hormônios controlam funções nervosas.

Com base no texto e nas características dos sistemas nervoso e endócrino, considere as seguintes afirmativas:

I- O sistema neuroendócrino integra funções do sistema nervoso e do sistema endócrino. Ele coordena a comunicação entre esses dois sistemas, contribuindo para a homeostase do organismo.
II- Os neurotransmissores procedem à comunicação rápida e local entre neurônios; já os hormônios são mensageiros químicos que são transportados pelo sangue e têm efeitos mais duradouros e amplos em órgãos e tecidos específicos.

III- A dopamina, que está associada à sensação de prazer e de recompensa, é exemplo de um hormônio produzido pela hipófise.
IV- A glândula tireoide tem a função de controlar o metabolismo do organismo por meio da secreção do hormônio cortisol.

Está(ão) CORRETA(S)

a) apenas a II.
b) I e II.
c) I, II e III.
d) I, II e IV.
e) todas as afirmativas.

QUESTÃO 29

O aumento da produção industrial e o crescimento populacional têm impactado significativamente o meio ambiente, gerando um aumento da produção de resíduos e do consumo desenfreado de recursos naturais. Nesse contexto, a conscientização sobre práticas de consumo sustentável se torna essencial para a preservação do planeta. Das afirmativas abaixo, a que NÃO representa uma prática de consumo sustentável é esta:

a) Recorrer a sacolas reutilizáveis em vez de a sacolas plásticas descartáveis reduz significativamente o impacto ambiental das compras diárias.
b) Comprar produtos locais e sazonais não só apoia a economia local, mas também reduz as emissões de carbono associadas ao transporte de longas distâncias.
c) Reduzir o uso de produtos descartáveis, como garrafas de água e utensílios de plástico, e optar por alternativas reutilizáveis pode diminuir a quantidade de lixo produzido.

d) Descartar plásticos e outros materiais não recicláveis diretamente no lixo comum.
e) Praticar a compostagem de restos de alimentos e resíduos orgânicos ajuda a transformar resíduos em fertilizantes naturais, diminuindo a quantidade de lixo que é despejado em aterros.

QUESTÃO 30

As gorduras saudáveis são um componente vital de uma dieta equilibrada e desempenham um papel crucial na saúde geral do corpo. Diferentemente das gorduras saturadas e trans, que podem contribuir para problemas de saúde, como doenças cardíacas, as gorduras saudáveis oferecem diversos benefícios e são essenciais para o bom funcionamento do organismo. Sobre as gorduras saudáveis, marque a afirmativa CORRETA:

a) Gorduras saudáveis são geralmente sólidas à temperatura ambiente e contêm significativos níveis de gorduras trans.
b) Gorduras saudáveis são predominantemente encontradas em alimentos processados e fritos, que frequentemente utilizam óleos refinados.
c) Gorduras saudáveis são ricas em ácidos graxos monoinsaturados e poli-insaturados, e são líquidas à temperatura ambiente, como o azeite de oliva e o óleo de abacate.
d) Gorduras saudáveis tendem a se acumular nos vasos sanguíneos e são comumente encontradas em carnes processadas e laticínios integrais.
e) Gorduras saudáveis são predominantemente encontradas em alimentos ricos em colesterol, como ovos e carnes vermelhas.

QUESTÃO 31

Sobre a unificação alemã no século XIX, é CORRETO afirmar que

a) foi um processo de centralização marcado por acordos diplomáticos que possibilitaram a não utilização da força como via privilegiada para o sucesso da unificação.
b) ocorreu de forma tardia frente a outros países europeus e relegou a Alemanha a um lugar subalterno no processo de partilha da África e da Ásia.
c) o desenvolvimento da indústria militar alemã diminuiu sensivelmente ao final da unificação, sendo um dos motivos da sua derrota na Primeira Guerra Mundial.
d) ocorreu no início do século, sendo uma das primeiras unificações nacionalistas europeias, e foi seguida de um período marcado pelo alastramento de Revoluções Nacionalistas naquela e em outras regiões.
e) ocorreu pela capacidade da Renânia em submeter os demais principados do Império Germânico, em especial a Prússia, ao seu controle político.

QUESTÃO 32

Colonialismo e neocolonialismo são dois momentos distintos, mas complementares, que tratam do expansionismo econômico e social dos países, europeus principalmente. Sobre esses dois momentos históricos, assinale a alternativa que destaca CORRETAMENTE uma diferença e uma semelhança entre o colonialismo e o neocolonialismo, respectivamente:

a) No primeiro caso, o fundamento para o expansionismo era religioso; no segundo, civilizatório. / Ambos entendiam a civilização europeia – seja pelo cristianismo, seja pela tecnologia – como superiores às demais civilizações.
b) No primeiro caso, o expansionismo europeu ficou restrito ao continente americano; no segundo, deu-se em todo o globo terrestre. / Os dois processos tiveram como grandes beneficiários alguns países europeus, principalmente.
c) No primeiro caso, as vias marítimas foram as principais formas do processo expansionista; no segundo, a expansão se deu pelo céu e pela terra. / Ambos foram processos que aceleraram o processo civilizatório dos países colonizados.
d) No primeiro caso, os principais beneficiários foram Portugal e Holanda; no segundo, Itália, Inglaterra e França. / Os dois processos se pautaram pelo respeito às culturas pré-existentes nas colônias e suas formas de organização social.
e) No primeiro caso, o princípio da ocupação fora o Tratado de Tordesilhas, respeitado por todos os países cristãos; no segundo, o *uti possidetis* (posse por uso da terra), conferindo a propriedade da colônia a quem a ocupasse primeiro. / Ambos os processos foram marcados pela destruição dos governos locais e pela instituição de um modelo europeu de exercício de poder.

QUESTÃO 33

Esses critérios, herdados, por sua vez, da atividade mercantil das repúblicas italianas na Idade Média, visavam, mais do que à instituição de um genuíno império colonial, à criação de uma rede de feitorias e centros de abastecimento costeiros, sob a proteção de fortalezas, em volta das quais se formariam núcleos relativamente estáveis de população.

HOLANDA, Sérgio Buarque de. **História Geral da Civilização Brasileira**: a época colonialdo descobrimento à expansão territorial. V. 1. 15. ed. Rio de Janeiro: Bertrand Brasil, 2007. Fragmento.

Sobre o sistema de feitorias, é CORRETO afirmar que

a) protagonizou as três primeiras décadas após a chegada dos portugueses e, no território do atual estado do Rio de Janeiro, foi primeiramente instalada uma feitoria onde hoje é a cidade de Cabo Frio/RJ.
b) vigorou por todo o período colonial e, após sua função na economia extrativista do pau-Brasil, foi integrado ao circuito comercial da cana-de-açúcar, do ouro e do café.
c) tinha como objetivo principal servir de abrigo às tripulações naufragadas de navios portugueses.
d) servia de "depósito" para o pau-prasil, que era retirado das matas pelos primeiros escravizados africanos chegados à nova colônia lusitana.
e) tinha função religiosa, além de militar e econômica, pois servia de local para a celebração de missas na ausência de igrejas.

QUESTÃO 34

Filho de um ex-senador da República, Collor pertencia à oligarquia de um dos estados mais atrasados e pobres da federação, Alagoas, do qual se tornara governador em 1986. Era um *outsider* com relação às elites econômicas do centro-sul, embora tivesse se criado na cidade do Rio de Janeiro e se casado, em primeiras núpcias, com a herdeira de um dos maiores grupos empresariais do país. Seus principais adversários, no primeiro turno das eleições, foram Leonel Brizola, herdeiro político de Vargas e membro do Partido Democrático Trabalhista (PDT), e Luiz Inácio Lula da Silva, do Partido dos Trabalhadores (PT). Collor não obteve o apoio das grandes formações partidárias e, por isso, candidatou-se por um partido modesto, o Partido da Reconstrução Nacional (PRN). No entanto, contou com a simpatia da TV Globo, pertencente ao maior grupo de comunicações do país, a qual não via com bons olhos a possibilidade de uma vitória de Brizola ou de Lula. Como candidato à vice-presidência, Collor escolheu Itamar Franco, um político sem expressão nacional à época que era senador por Minas Gerais.

FAUSTO, Boris. **História Concisa do Brasil**. São Paulo: EdUSP, Imprensa Oficial-SP, 2001

Sobre as medidas econômicas tomadas ao longo do breve governo Collor, assinale a alternativa CORRETA:

a) Buscou nacionalizar empresas estrangeiras como forma de fortalecer a economia brasileira.
b) Estabilizou a inflação no Brasil por meio do Plano Real.
c) Confiscou a poupança dos brasileiros na tentativa de controlar a inflação.
d) Foi responsável pelo fechamento da economia brasileira ao capital estrangeiro.
e) Promoveu a privatização da Petrobras.

QUESTÃO 35

Carta-testamento de Getúlio Vargas

E aos que pensam que me derrotaram respondo com a minha vitória. Era escravo do povo e hoje me liberto para a vida eterna. Mas esse povo de quem fui escravo não mais será escravo de ninguém. Meu sacrifício ficará para sempre em sua alma e meu sangue será o preço do seu resgate. Lutei contra a espoliação do Brasil. Lutei contra a espoliação do povo. Tenho lutado de peito aberto. O ódio, as infâmias, a calúnia não abateram meu ânimo. Eu vos dei a minha vida. Agora vos ofereço a minha morte. Nada receio. Serenamente dou o primeiro passo no caminho da eternidade e saio da vida para entrar na História.
(Rio de Janeiro, 23/08/54 - Getúlio Vargas)

Disponível em: https://www2.camara.leg.br/atividade-legislativa/plenario/discursos/escrevendohistoria/getulio-vargas/carta-testamento-de-getulio-vargas. Acesso em: 06 set. 24. Fragmento.

Sobre o suicídio de Getúlio, é CORRETO afirmar que

a) foi impulsionado devido aos inúmeros escândalos de corrupção em que o nome de Vargas estava envolvido.
b) ocorreu de forma acidental, tendo Vargas sido alvejado enquanto limpava sua arma de colecionador.
c) o político, candidato à reeleição, ceifou sua própria vida como forma de garantir a eleição de seu vice, Juscelino Kubistchek, diante da iminente derrota eleitoral no pleito que se aproximava.

d) houve piora da reputação de Getúlio Vargas após seu suicídio, dando lugar para a eleição de rivais e o sucesso de seus opositores.
e) se deu no calor das críticas de parte da mídia por episódios, como a nacionalização da exploração do petróleo no Brasil e o atentado da Rua Toneleros.

QUESTÃO 36

A figura a seguir é muito comum em livros didáticos quando os assuntos tratados são os movimentos do planeta Terra e os pontos cardeais.



Fonte: Slideshare. Disponível em: https://pt.slideshare.net/slideshow/guia-didtico-de-energia-solar-05-relgios-de-sol/47649246?from_search=9. Acesso em: 30 ago. 2024. Adaptado.

Considerando que o garoto da figura está olhando para o sol no exato momento em que ele se põe, pode-se afirmar que o lado direito será o ponto cardeal

a) norte; o esquerdo, Sudeste; as costas, Nordeste.
b) nordeste; o esquerdo, Sul; as costas, Noroeste.
c) sul; o esquerdo, Sudeste; as costas, Nordeste.
d) norte; o esquerdo, Sudeste; as costas, Leste.
e) norte; o esquerdo, Sul; as costas, Leste.

QUESTÃO 37

A tabela a seguir apresenta dados sobre a população dos municípios da região Norte Fluminense.

NOME DO MUNICÍPIO	Área Km²	POP_2000	POP_2010	POP_2022
Campos dos Goytacazes	4026,70	406989	463545	483551
Carapebus	308,10	8666	13348	13847
Cardoso Moreira	524,60	12595	12540	12958
Quissamã	712,90	13674	20244	22393
Conceição de Macabu	347,30	18782	21200	21104
São João da Barra	455,00	27682	32767	36573
São Fidélis	1031,60	36789	37553	38939
São Francisco de Itabapoana	1122,40	41142	41357	45059
Macaé	1216,80	132461	206748	246391

Fonte: IBGE, Censos Demográficos 2000, 2010, 2022.

A partir da análise dos dados, pode-se afirmar que o município que apresentou maior crescimento, no período de 2000 a 2022, foi

a) Campos dos Goytacazes.
b) Macaé.
c) São João da Barra.
d) Cardoso Moreira.
e) Quissamã.

QUESTÃO 38

Nos Estados Unidos, em 1975, a EPA analisou emissões da queima da cana em experimento com cana inteira e só palha em torre de incineração. Foram determinadas as emissões de material particulado, monóxido de carbono, hidrocarbonetos, benzopireno (BaP) e metais traço: berilo, cádmio, cromo, cobre e níquel. Verificou-se que 90% das partículas tinham menos que 0,5 μm de diâmetro. Os fatores de emissão encontrados, com nível de confiança de 99%, foram: material particulado 4,1-6,5 libras por tonelada; monóxido de carbono 47,7-71,2 libras por tonelada; hidrocarbonetos 2,3-14 libras por tonelada (Darley & Lerman, 1975).[3] As partículas menores que

10 µm (PM10), o monóxido de carbono e os hidrocarbonetos apresentam efeitos negativos na saúde.

Ribeiro, Helena. Queimadas de cana-de-açúcar no Brasil: efeitos à saúde respiratória. **Rev. Saúde Pública**, v. 42, n. 2, p. 370-376, 2008. Disponível em: https://www.scielo.br/j/rsp/a/CLL98Jd3TZpNGGDJQhFFQBB/. Acesso em: 29 ago. 2024. Fragmento.

Considerando o fragmento do artigo publicado na Revista de Saúde Pública, pode-se afirmar que a relação entre causa e consequência do processo a que se refere o texto remete a

a) poluição hídrica e problemas cardíacos.
b) poluição atmosférica e problemas respiratórios.
c) poluição dos solos e problemas cardíacos.
d) poluição hídrica e problemas respiratórios.
e) poluição dos solos e problemas de pele.

QUESTÃO 39

Cartograma: localização de um bioma brasileiro

Fonte: National Geographic.
Disponível em: https://www.nationalgeographicbrasil.com. Acesso em: 31 ago. 2024.

Seca Extrema e incêndios: o exemplo de um bioma brasileiro em 2024

Considerada a maior área úmida continental do planeta, **[omitido propositadamente]** é caracterizado por inundações periódicas que moldam sua paisagem e biodiversidade no bioma. A interação entre períodos de cheia e seca resulta na acumulação de material orgânico, que, durante a seca, se transforma em combustível para incêndios. Períodos de seca prolongada aumentam o risco e a intensidade dos incêndios. Dado que em 2024 não houve o esperado pico de cheia e os incêndios começaram mais cedo do que previsto. No entanto, devido à ação humana, as chamas que deveriam ser ocasionadas apenas por causas naturais, como raios, se intensificam por incêndios criminosos. Desmatamento, conversão de áreas para agricultura e pecuária, e mudanças nos regimes de águas são causas que geram impactos nas mudanças climáticas.

Em 2024, a área queimada no primeiro semestre aumentou 529% em relação à média dos anos anteriores. Junho concentrou 79% dessa área, sendo a maior já observada no bioma no período do Monitor do Fogo. A maioria das queimadas ocorreu em áreas naturais, principalmente campestres. O maior município deste localizado neste bioma, Corumbá, no Mato Grosso do Sul, foi o mais afetado por incêndios no primeiro semestre 2024.

Fonte: Nota Técnica do MapBiomas. Disponível em: https://brasil.mapbiomas.org/. Acesso em: 31 ago. 2024. Fragmento.

O cartograma e as informações do fragmento se referem a um bioma brasileiro que está localizado entre os estados de Mato Grosso e Mato Grosso do Sul, apresentando clima tropical continental e vegetação marcada por gramíneas, árvores de médio porte e plantas rasteiras. O bioma com essas características, que foi considerado Reserva da Biosfera e Patrimônio Natural Mundial, é

a) o Pampa.
b) a Mata Atlântica.
c) a Caatinga.
d) a Mata das Araucárias.
e) o Pantanal.

QUESTÃO 40

Fonte: IBGE.
Disponível em: https://www.poder360.com.br/brasil/brasil-tem-140-mi-de-pessoas-em-idade-ativa-leia-piramide-etaria/. Acesso em: 31 ago. 2024.

Sobre a evolução dos dados da pirâmide etária do Censo de 2010, em comparação com o Censo 2022 no Brasil, marque a alternativa INCORRETA:

a) Houve aumento do quantitativo de crianças.
b) Houve aumento do quantitativo de idosos.
c) Houve diminuição do percentual de pessoas na faixa etária entre 20 e 24 anos.
d) Houve aumento do percentual de pessoas entre 35 e 39 anos.
e) Houve diminuição do número jovens entre 15 a 19 anos.

Tabela periódica

1	2	3	4	5	6	7	8	9	10	11	12	13	14	15	16	17	18
1 H hidrogênio 1,008																	2 He hélio 4,0026
3 Li lítio 6,94	4 Be berílio 9,0122											5 B boro 10,81	6 C carbono 12,011	7 N nitrogênio 14,007	8 O oxigênio 15,999	9 F flúor 18,998	10 Ne neônio 20,180
11 Na sódio 22,990	12 Mg magnésio 24,305											13 Al alumínio 26,982	14 Si silício 28,085	15 P fósforo 30,974	16 S enxofre 32,06	17 Cl cloro 35,45	18 Ar argônio 39,948
19 K potássio 39,098	20 Ca cálcio 40,078(4)	21 Sc escândio 44,956	22 Ti titânio 47,867	23 V vanádio 50,942	24 Cr crômio 51,996	25 Mn manganês 54,938	26 Fe ferro 55,845(2)	27 Co cobalto 58,933	28 Ni níquel 58,693	29 Cu cobre 63,546(3)	30 Zn zinco 65,38(2)	31 Ga gálio 69,723	32 Ge germânio 72,630(8)	33 As arsênio 74,922	34 Se selênio 78,971(8)	35 Br bromo 79,904	36 Kr criptônio 83,798(2)
37 Rb rubídio 85,468	38 Sr estrôncio 87,62	39 Y ítrio 88,906	40 Zr zircônio 91,224(2)	41 Nb nióbio 92,906	42 Mo molibdênio 95,95	43 Tc tecnécio [98]	44 Ru rutênio 101,07(2)	45 Rh ródio 102,91	46 Pd paládio 106,42	47 Ag prata 107,87	48 Cd cádmio 112,41	49 In índio 114,82	50 Sn estanho 118,71	51 Sb antimônio 121,76	52 Te telúrio 127,60(3)	53 I iodo 126,90	54 Xe xenônio 131,29
55 Cs césio 132,91	56 Ba bário 137,33	57 a 71	72 Hf háfnio 178,49(2)	73 Ta tântalo 180,95	74 W tungstênio 183,84	75 Re rênio 186,21	76 Os ósmio 190,23(3)	77 Ir irídio 192,22	78 Pt platina 195,08	79 Au ouro 196,97	80 Hg mercúrio 200,59	81 Tl tálio 204,38	82 Pb chumbo 207,2	83 Bi bismuto 208,98	84 Po polônio [209]	85 At astato [210]	86 Rn radônio [222]
87 Fr frâncio [223]	88 Ra rádio [226]	89 a 103	104 Rf rutherfórdio [267]	105 Db dúbnio [268]	106 Sg seabórgio [269]	107 Bh bóhrio [270]	108 Hs hássio [269]	109 Mt meitnério [278]	110 Ds darmstádtio [281]	111 Rg roentgênio [281]	112 Cn copernício [285]	113 Nh nihônio [286]	114 Fl flerávio [289]	115 Mc moscóvio [288]	116 Lv livermório [293]	117 Ts tenessino [294]	118 Og oganessônio [294]

57 La lantânio 138,91	58 Ce cério 140,12	59 Pr praseodímio 140,91	60 Nd neodímio 144,24	61 Pm promécio [145]	62 Sm samário 150,36(2)	63 Eu európio 151,96	64 Gd gadolínio 157,25(3)	65 Tb térbio 158,93	66 Dy disprósio 162,50	67 Ho hólmio 164,93	68 Er érbio 167,26	69 Tm túlio 168,93	70 Yb itérbio 173,05	71 Lu lutécio 174,97
89 Ac actínio [227]	90 Th tório 232,04	91 Pa protactínio 231,04	92 U urânio 238,03	93 Np netúnio [237]	94 Pu plutônio [244]	95 Am amerício [243]	96 Cm cúrio [247]	97 Bk berquélio [247]	98 Cf califórnio [251]	99 Es einstênio [252]	100 Fm férmio [257]	101 Md mendelévio [258]	102 No nobélio [259]	103 Lr laurêncio [262]

número atômico
símbolo químico
nome
peso atômico (ou número de massa do isótopo mais estável)

3 Li lítio [6,938 - 6,997]

www.tabelaperiodica.org

Licença de uso Creative Commons By-NC-SA 4.0 - Use somente para fins educacionais
Caso encontre algum erro favor avisar pelo mail luisbrudna@gmail.com

Versão IUPAC (pt-br) com 5 algarismos significativos, baseada em DOI:10.1515/pac-2015-0305 - atualizada em 27 de março de 2017

NOSSOS CAMPI

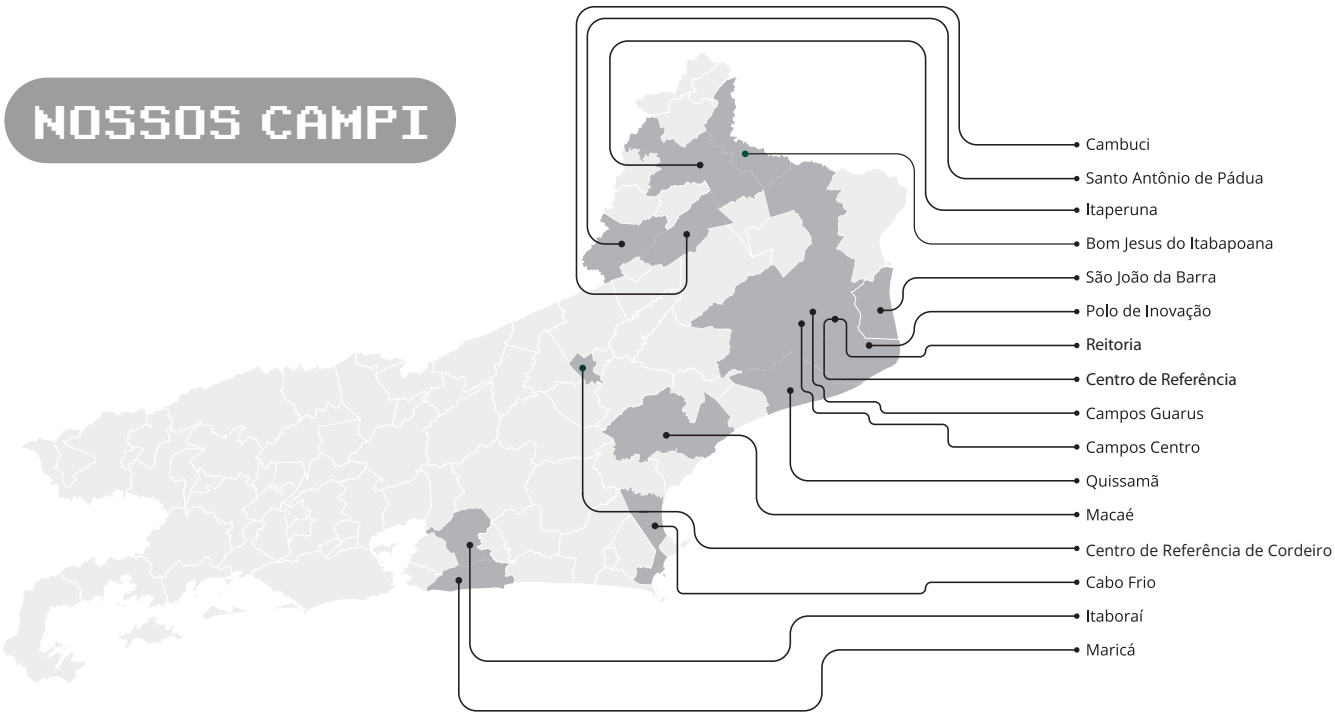

CAMPUS AVANÇADO CAMBUCI
Santo Antão, Estrada Cambuci - Três Irmãos, Km 5
Cambuci/RJ

CAMPUS AVANÇADO MARICÁ
Rua das Quintanilhas, N.º 438
(antigo IBEC - Instituto Batista de Educação e Cultura)
Maricá/RJ

CAMPUS BOM JESUS DO ITABAPOANA
Avenida Dário Vieira Borges, N.º 235
Lia Márcia • Bom Jesus do Itabapoana/RJ

CAMPUS CABO FRIO
Estrada Cabo Frio/Búzios, s/N.º, Km 07
Baía Formosa • Cabo Frio/RJ

CAMPUS CAMPOS CENTRO
Rua Dr. Siqueira, N.º 273 - Parque Dom Bosco
Campos dos Goytacazes/RJ

CAMPUS CAMPOS GUARUS
Avenida Souza Mota, N.º 350 - Parque Fundão
Campos dos Goytacazes/RJ

CAMPUS ITABORAÍ
Rua Izaura Pantoja, 167-333 - Nova Cidade
Itaboraí/RJ

CAMPUS ITAPERUNA
BR 356, Km 3 - Cidade Nova
Itaperuna/RJ

CAMPUS MACAÉ
Rodovia Amaral Peixoto, Km 164 - Imboassica
Macaé/RJ

CAMPUS QUISSAMÃ
Avenida Amilcar Pereira da Silva, N.º 727
Piteiras • Quissamã/RJ

CAMPUS SANTO ANTÔNIO DE PÁDUA
Avenida João Jazbich, s/N.º - Bairro Aeroporto
Santo Antônio de Pádua/RJ

CAMPUS SÃO JOÃO DA BARRA
BR 356 - Km 181 - Povoado Perigoso
São João da Barra

CENTRO DE REFERÊNCIA DE CORDEIRO
Avenida Presidente Vargas, N.º 197 - Centro
(dentro do Parque de Exposição)
Cordeiro/RJ

INSTITUTO
FEDERAL
Fluminense